翰林校用 數學 第14回

數學 1下 第13回 第一次成績考查（第一至6單元） 年 班 號 姓名：

（適用三次考查）

得分

一 數數看，有多少？ 每格1分，共7分

1.

有 ☐ 顆草莓

2.

☐ 個十和 ☐ 個一，合起來是 ☐。 有 ☐ 顆彈珠

3.

有 ☐ 朵花

4.

有 ☐ 顆棉花糖

二 全部的積木和多少個一樣多？記在位值表上，再回答問題：每格1分，共10分

1. 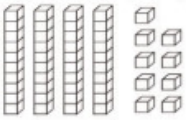

十位	個位

（　）個十和（　）個一，合起來是（　）。

2. 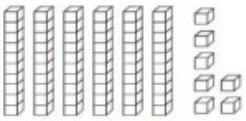

十位	個位

（　）個十和（　）個一，合起來是（　）。

三 按照數的順序填填看：每格1分，共7分

1. 30 — 40 — ☐ — ☐ — 70
2. 87 — 77 — ☐ — ☐ — ☐
3. 92 — ☐ — ☐ — 95 — 96

四 填填看：每小題2分，共10分

1. 2個 可以換 ☐ 張 。
2. 5個 可以換 ☐ 個 。
3. 3個 可以換 ☐ 個 。
4. 用了幾個 ▽？

(1) 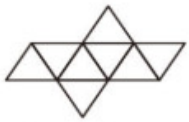

（　）個

(2) 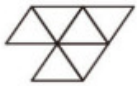

（　）個

五 圈圈看：每小題2分，共18分

1. 把形狀、大小和左邊圖形一樣的圈起來。

(1)

(2)

(3)

2. 哪些是用7個 排起來的？

(1)

(2) 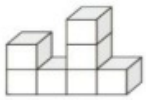

(3)

(4) 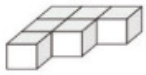

3. 宣宣和美美各買了一個38元的紅豆麵包，用不同的方法付錢。圈圈看。

(1) 宣宣的付法

(2) 美美的付法

版權所有・翻印必究

〔背面還有試題〕