翰林校用 數學 第15回

六 數一數，看一看，共有幾個？每題2分，共12分

1.

（　　）個

2. 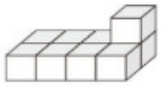

（　　）個

3. 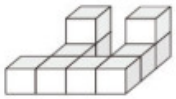

（　　）個

4. 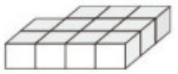

（　　）個

5. 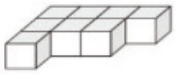

（　　）個

6.

（　　）個

七 先將數字記在位值表上，再圈圈看：每答1分，共10分

1. 卡卡採了49顆番茄，小新採了63顆番茄，誰採的番茄比較多？

卡卡	
十位	個位

小新	
十位	個位

（卡卡，小新）採的番茄比較多。

2. 邦邦買了75顆果凍，小貝買了55顆果凍，誰買的果凍比較少？

邦邦	
十位	個位

小貝	
十位	個位

（邦邦，小貝）買的果凍比較少。

八 用⑩表示 ，①表示 。畫畫看，怎麼付錢才會剛好？每題3分，共6分

1. 三明治

38元

2. 米漢堡

49元

九 愛華、大仁和美瑩一起去買玩具，回答問題：每答2分，共20分

玩具車　70元

陀螺　45元

布偶　66元

1. 數數看，有幾元？誰的錢最多？請在□裡打✓。

愛華

（　　）元

大仁

（　　）元

美瑩

（　　）元

2. 美瑩想買一隻布偶，她的錢不夠，還要補多少元才會剛好？用①畫出來。

3. 愛華想買一個陀螺，他帶的錢夠不夠買？圈圈看。

（夠，不夠）買

4. 大仁想買一輛玩具車，他可以怎麼付錢？

(1) 可以付（　　）個 和（　　）個 。

(2) 可以付（　　）個 和（　　）個 。

版權所有・翻印必究