翰林校用 數學 第18回

數學 1下 第15回 期末成果考查（第1～5單元）

（適用二次考查）

一年____班____號

姓名：_____

得分

一 按照數的順序填填看：每格1分，共4分

1. 15 ___ ___ 30 35 40

2. 48 58 ___ ___ 88 98

二 數數看有多少？先記在位值表上，再回答問題：每格1分，共10分

1.

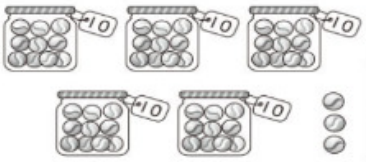

十位	個位

□個十和□個一，合起來是□。

2.

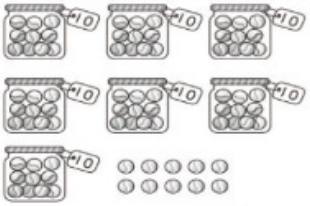

十位	個位

7個十和□個一，合起來是□個十，是□。

三 把比較大的數打✓，比較小的數畫○：每格1分，共4分

1. 83 43 □ □

2. 62 68 □ □

四 看圖填填看：每題2分，共6分

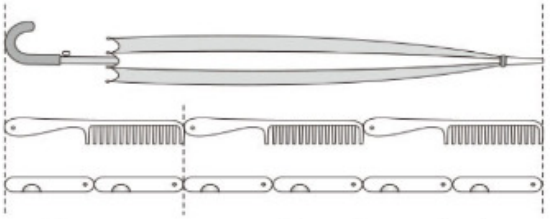

1. 一把 和（　　）把 一樣長。
2. 一把 和（　　）把 一樣長。
3. 一把 和（　　）把 一樣長。

五 看圖做做看：每小題1分，共8分

1. 每個格子的長度都一樣長，對的畫○，錯的打×。

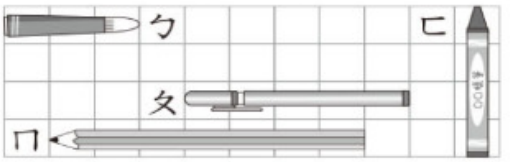

(1)（　　）ㄅ和3個格子一樣長。
(2)（　　）ㄈ比ㄆ長。
(3)（　　）ㄇ比ㄈ短。
(4)（　　）ㄇ和7個格子一樣長。

2. 下面的圖形是用6個 拼出來的打✓，是用8個 拼出來的畫○，都不是的打×。

(1)

（　　）

(2)

（　　）

(3)

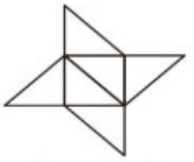

（　　）

(4)

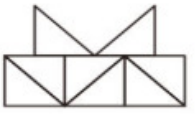

（　　）

六 數一數，用了幾個 ？填填看：每題2分，共12分

1.

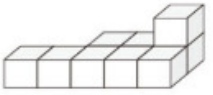

（　　）個

2.

（　　）個

3.

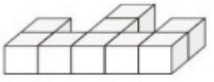

（　　）個

4.

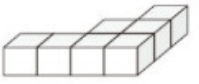

（　　）個

5.

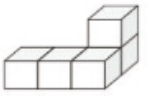

（　　）個

6.

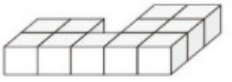

（　　）個

版權所有・翻印必究

〔背面還有試題〕