數學 一下 第 1 回

1、20 以內的加法 (1)

得分

一 看圖填填看：每格 1 分，共 12 分

1. 共有幾個蛋糕？

6＋□＝□　　□個

2. 共有幾隻昆蟲？



9＋□＝□　　□隻

3. 操場上有 3 個女生和 8 個男生，共有幾個人？



□＋8＝□　　□個人

4. 公車上原有 4 個人，又上來 9 個人，現在公車上有幾個人？



4＋□＝□　　□個人

二 連連看，把答案一樣的算式連起來：每題 1 分，共 5 分

1. 6＋7 •　　• ㄅ 6＋9
2. 9＋6 •　　• ㄆ 8＋3
3. 3＋8 •　　• ㄇ 8＋4
4. 6＋8 •　　• ㄈ 7＋6
5. 4＋8 •　　• ㄉ 8＋6

三 畫○做做看：每題 3 分，共 18 分

1. 2＋8＝□　　2. 4＋10＝□
3. 8＋8＝□　　4. 8＋5＝□
5. 8＋7＝□　　6. 9＋9＝□

四 算算看：每格 1 分，共 12 分

1. 3＋7＝（　　）
   3＋8＝（　　）
   3＋9＝（　　）

2. 5＋6＝（　　）
   5＋7＝（　　）
   5＋8＝（　　）

3. 6＋9＝（　　）
   5＋9＝（　　）
   4＋9＝（　　）

4. 7＋7＝（　　）
   6＋7＝（　　）
   5＋7＝（　　）

五 看下面的心算卡回答問題：每答 1 分，共 9 分

ㄅ 9＋2　　ㄆ 7＋4　　ㄇ 3＋9
ㄈ 6＋6　　ㄉ 9＋5　　ㄊ 4＋8
ㄋ 5＋8　　ㄌ 7＋7　　ㄍ 6＋7

1. 心算卡答案是 11 的有
   （　　）
2. 心算卡答案是 12 的有
   （　　）
3. 心算卡答案是 13 的有
   （　　）
4. 心算卡答案是 14 的有
   （　　）

版權所有・翻印必究
【背面還有試題】

六 填填看：每格 1 分，共 12 分

素 素表示素養題

1.



(1) 先數右邊：

右邊有 □ 個人，左邊有 □ 個人，共有 □ 個人。

(2) 先數左邊：

左邊有 □ 個人，右邊有 □ 個人，共有 □ 個人。

(3) 先數穿裙子的人：

有 □ 個人穿裙子，有 □ 個人穿褲子，共有 □ 個人。

(4) 先數穿褲子的人：

有 □ 個人褲子，有 □ 個人穿裙子，共有 □ 個人。

七 連連看，把算式連到正確的答案：每題 1 分，共 8 分

1. 7+7	2. 10+9	3. 8+9	4. 7+5
ㄅ 15	ㄆ 12	ㄇ 19	ㄈ 17
5. 10+5	6. 4+8	7. 8+7	8. 9+8
ㄉ 14			

八 寫出算式做做看：每題 4 分，共 24 分

1. 姐姐有 8 張色紙，妹妹有 6 張色紙，兩人一共有幾張色紙？

共有（　　）張色紙

2. 樹上原有 10 隻小鳥，又飛來了 6 隻，現在樹上有幾隻小鳥？

有（　　）隻小鳥

3. 桌上有 7 顆紅蘋果和 5 顆青蘋果，全部有幾顆蘋果？

全部有（　　）顆蘋果

4. 哥哥昨天看了 10 頁的故事書，今天看了 9 頁，這兩天共看了幾頁故事書？

共看了（　　）頁故事書

5. 花瓶裡有 5 朵百合花和 9 朵玫瑰花，花瓶裡共有幾朵花？

共有（　　）朵花

6. 冰箱裡有 8 瓶牛奶和 7 瓶果汁，冰箱裡全部有幾瓶飲料？

全部有（　　）瓶飲料

版權所有・翻印必究