翰林門市 數學 第02回 (1/2)

數學 一下 第2回

1、20以內的加法(2)

得分

一 看圖填填看：每格1分，共6分

1. 共有幾個月餅？

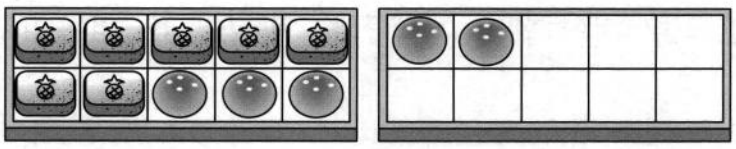

7＋5＝□

2. 共有幾顆糖果？



4＋9＝□

3. 共有幾個水果？



3＋□＝□

4. 樹上原來有9隻小鳥，又飛來8隻，現在樹上有幾隻小鳥？



9＋□＝□

二 先算出□裡的答案，再把相同的答案連起來：每答1分，共12分

1. 5＋6＝□ •　　•ㄅ 8＋5＝□

2. 6＋7＝□ •　　•ㄆ 7＋4＝□

3. 9＋6＝□ •　　•ㄇ 6＋8＝□

4. 7＋7＝□ •　　•ㄈ 8＋7＝□

三 比比看，答案比較大的在（　）裡打✓：每題4分，共8分

1. 6＋8　7＋8

（　　）（　　）

2. 5＋7　5＋6

（　　）（　　）

四 算算看：每格1分，共20分

1. 1＋1＝（　　）	2. 1＋10＝（　　）
2＋2＝（　　）	2＋9＝（　　）
3＋3＝（　　）	3＋8＝（　　）
4＋4＝（　　）	4＋7＝（　　）
5＋5＝（　　）	5＋6＝（　　）
6＋6＝（　　）	6＋5＝（　　）
7＋7＝（　　）	7＋4＝（　　）
8＋8＝（　　）	8＋3＝（　　）
9＋9＝（　　）	9＋2＝（　　）
10＋10＝（　　）	10＋1＝（　　）

五 看下面的心算卡回答問題：每答2分，共12分

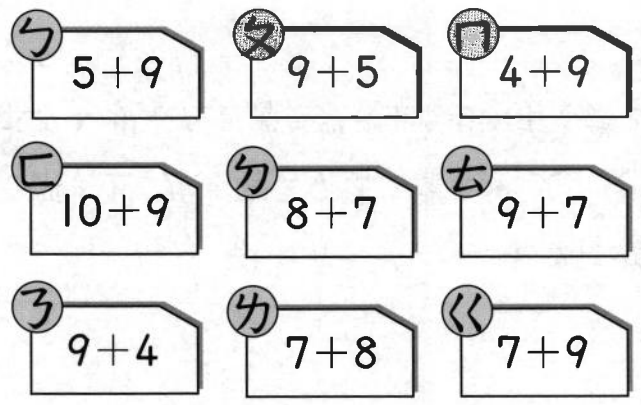

1. 心算卡答案是13的有

（　　）

2. 心算卡答案是15的有

（　　）

3. 心算卡ㄅ和心算卡ㄆ的答案哪一個比較大？圈圈看。

（ㄅ，ㄆ，一樣大）

4. 心算卡ㄉ和心算卡ㄊ的答案哪一個比較大？圈圈看。

（ㄉ，ㄊ，一樣大）

版權所有・翻印必究
【背面還有試題】

六 看圖填填看：每格 1 分，共 12 分

1.

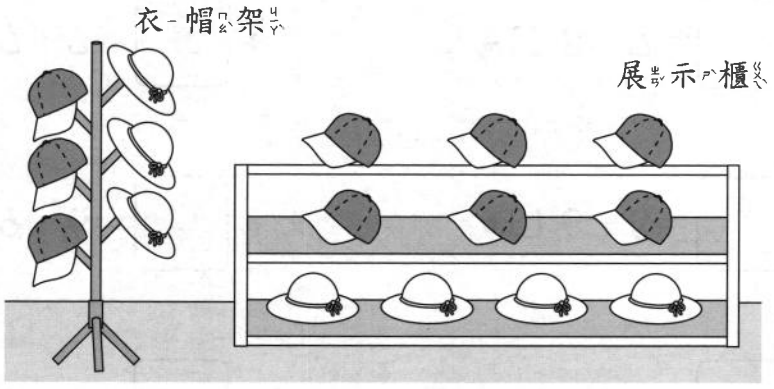

(1) 先數衣-帽架上的帽子：

衣-帽架上有 ☐ 頂，展示櫃上有 ☐ 頂，共有 ☐ 頂帽子。

(2) 先數展示櫃上的帽子：

展示櫃上有 ☐ 頂，衣-帽架上有 ☐ 頂，共有 ☐ 頂帽子。

(3) 先數 ：

有 ☐ 頂， 有 ☐ 頂，共有 ☐ 頂帽子。

(4) 先數 ：

有 ☐ 頂， 有 ☐ 頂，共有 ☐ 頂帽子。

七 先畫○做做看，再寫出算式：每題 3 分，共 6 分

1. 小華早上吃了 8 片海苔，下午吃了 10 片海苔，她共吃了幾片海苔？

畫○：

算式：　　（　　）片

2. 姐姐有 9 張貼紙，妹妹有 7 張貼紙，一共有幾張貼紙？

畫○：

算式：　　（　　）張

八 寫出算式做做看：每題 4 分，共 24 分

1. 籃子裡有 8 顆紅蘋果和 9 顆青蘋果，籃子裡有幾顆蘋果？

有（　　）顆蘋果

2. 小承有 7 顆糖果，小赫有 8 顆，兩人共有幾顆糖果？

共有（　　）顆糖果

3. 書架上原有 9 本書，又放上 9 本，現在書架上共有幾本書？

共有（　　）本書

4. 花圃裡開了 6 朵紅花、7 朵黃花，花圃裡共開了幾朵花？

共開了（　　）朵花

5. 哥哥有 10 張遊戲卡，弟弟又給哥哥 2 張，哥哥全部有幾張遊戲卡？

全部有（　　）張遊戲卡

6. 草地上有 6 隻兔子、8 隻小狗，草地上的兔子和小狗合起來有幾隻？

合起來有（　　）隻

版權所有・翻印必究