數學 一下 第3回

2、長度(1)

得分

一 看圖做做看：每答3分，共42分

1. 用同一條繩子來量不同床的長度，哪一張床的長度比較長？圈圈看。

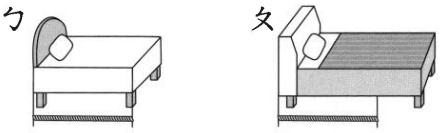

2.

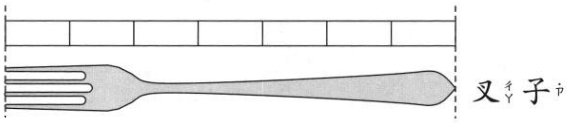

叉子和（　　）個▭一樣長。

3.

皮帶和（　　）枝▬一樣長。

4.

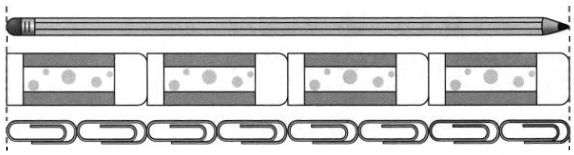

(1) ▬和（　　）個▭一樣長。

(2) 一塊▭和（　　）個▭一樣長。

(3) ▬和（　　）個▭一樣長。

5. 誰回家的路比較長？先填和幾格一樣長，再回答問題。

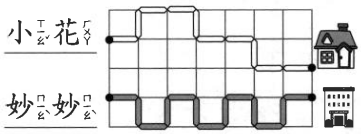

(1)（　　）格

(2)（　　）格

(3)（　　）回家的路比較長。

6.

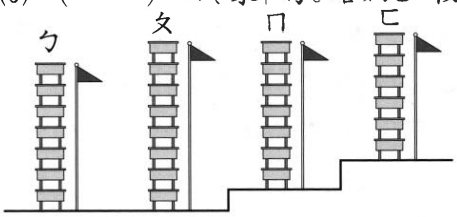

(1)（　　）旗杆最長，（　　）旗杆最短。

(2)（　　）旗杆和（　　）旗杆一樣長。

7.



繩子打開拉直後的長度和（　　）枝▬一樣長。

二 比比看，由長到短在（　）裡填入1、2、3：每格2分，共6分

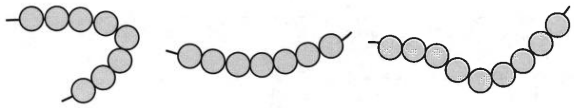

（　　）（　　）（　　）

三 把一樣長的連起來：每題3分，共12分

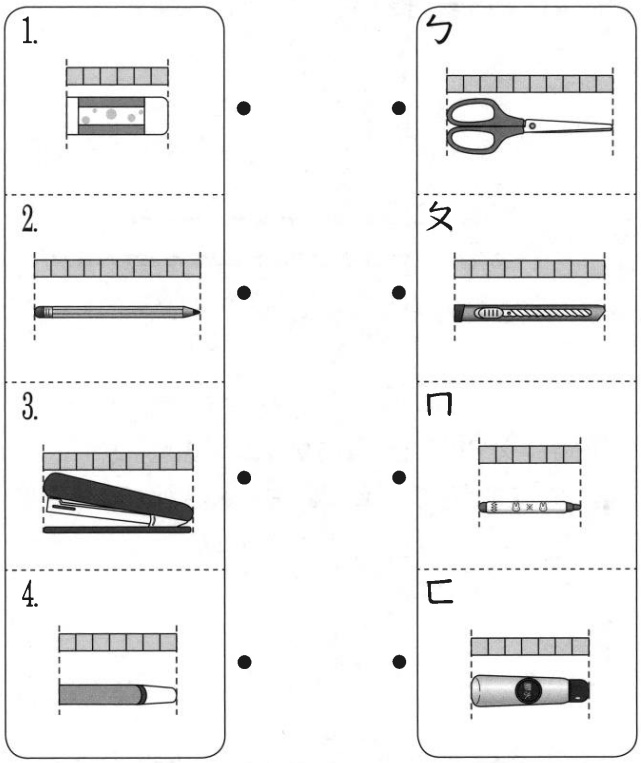

四 數一數，走到花圃的路是和幾個地磚一樣長？再回答問題：每題2分，共4分



1. 誰走的路最短？

（　　）

2. 誰走的路最長？

（　　）

版權所有・翻印必究
【背面還有試題】

五 看圖回答問題：每格 2 分，共 20 分

1. 下面哪一個櫃子比較矮？請打✓。

ㄅ

（　　）

ㄆ



（　　）

2. 下面的圖，每個方格的邊長都一樣長，看圖回答問題，對的畫◯，錯的打✕。

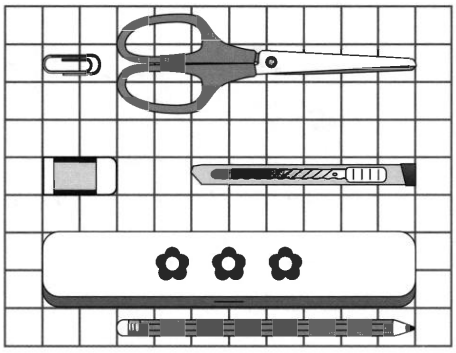

(1)（　　）橡皮擦和 3 個方格一樣長。

(2)（　　）鉛筆比鉛筆盒長。

(3)（　　）剪刀和美工刀接起來和 14 個方格一樣長。

(4)（　　）鉛筆和剪刀一樣長。

(5)（　　）迴紋針比一個方格長。

3.

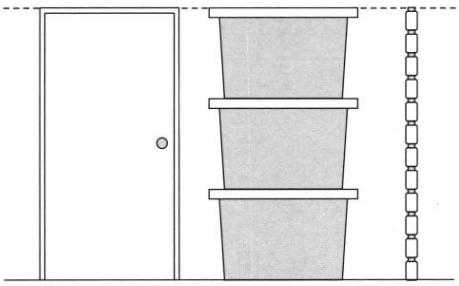

門　　箱子　　水壺

(1) 門和（　　）個箱子一樣高。

(2) 一個箱子和（　　）個水壺一樣高。

(3) 門和（　　）個水壺一樣高。

六 看圖寫出算式做做看：每題 4 分，共 16 分

1. 車頭和車身接起來和幾枝 一樣長？

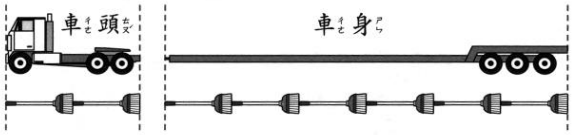

算式：

和（　　）枝 一樣長

2. 鉛筆和原子筆接起來和幾個 一樣長？

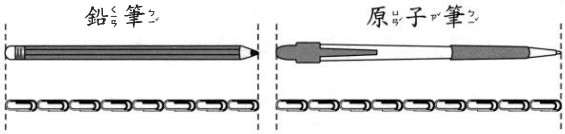

算式：

和（　　）個 一樣長

3. 琪琪把繩子剪下 3 枝鉛筆的長度，剩下的繩子和幾枝鉛筆一樣長？

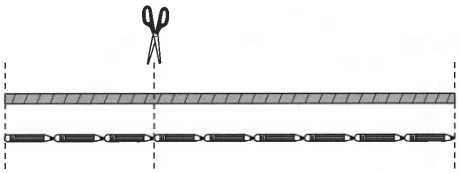

算式：

和（　　）枝鉛筆一樣長

4. 阿甜把緞帶剪下 5 個迴紋針的長度，剩下的緞帶和幾個迴紋針一樣長？

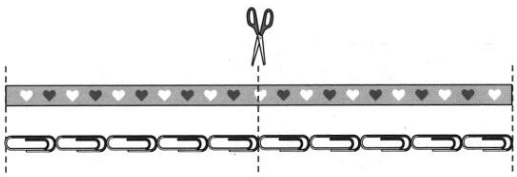

算式：

和（　　）個迴紋針一樣長

版權所有・翻印必究