翰林門市 數學 第03回 (1/2)

2、長度(1)

得分

一 看圖做做看：每答 3 分，共 42 分

1. 用同一條繩子來量不同床的長度，哪一張床的長度比較長？圈圈看。

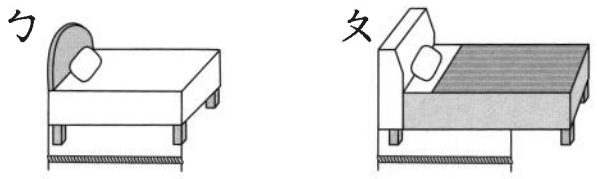

2. 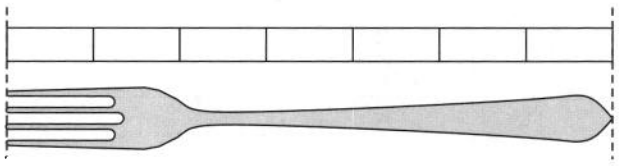

叉子和（　　）個 ▭ 一樣長。

3. 

皮帶和（　　）枝 ▬ 一樣長。

4. 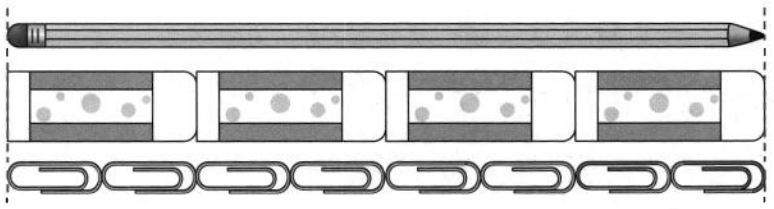

(1) ▬ 和（　　）個 ▭ 一樣長。

(2) 一塊 ▭ 和（　　）個 ▭ 一樣長。

(3) ▬ 和（　　）個 ▭ 一樣長。

5. 誰回家的路比較長？先填和幾格一樣長，再回答問題。

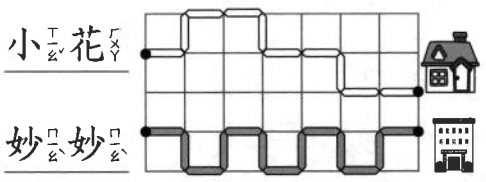

(1) （　　）格

(2) （　　）格

(3) （　　）回家的路比較長。

6. 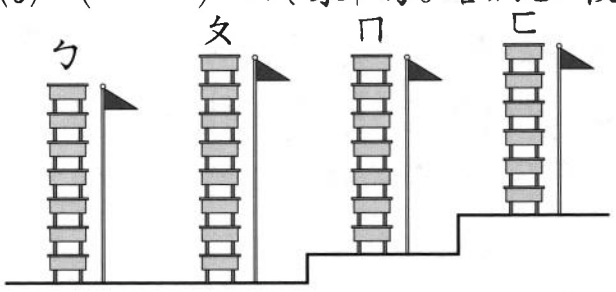

(1) （　　）旗杆最長，（　　）旗杆最短。

(2) （　　）旗杆和（　　）旗杆一樣長。

7. 

繩子打開拉直後的長度和（　　）枝 ▬ 一樣長。

二 比比看，由長到短在（　）裡填入 1、2、3：每格 2 分，共 6 分

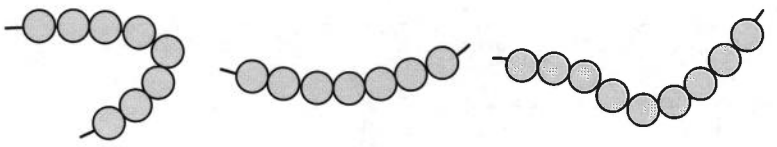

（　　）　（　　）　（　　）

三 把一樣長的連起來：每題 3 分，共 12 分

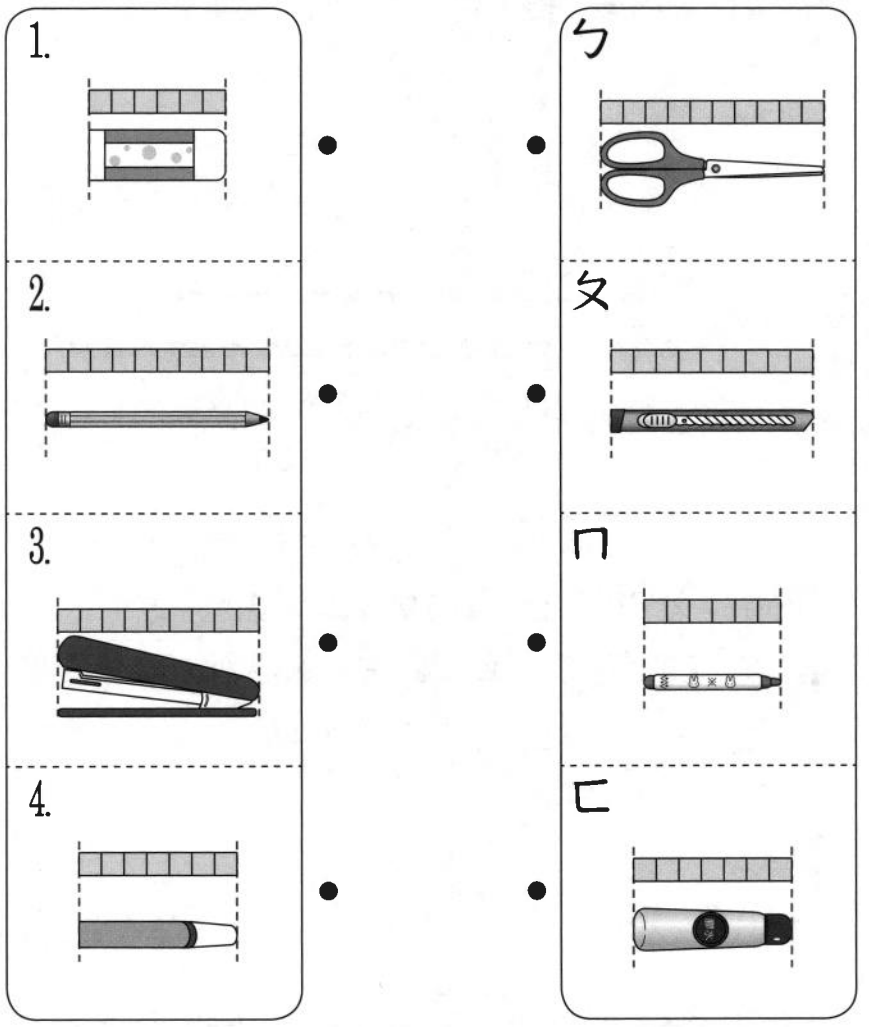

素 四 數一數，走到花圃的路是和幾個地磚一樣長？再回答問題：每題 2 分，共 4 分



1. 誰走的路最短？

（　　）

2. 誰走的路最長？

（　　）

版權所有・翻印必究
【背面還有試題】

五 看圖回答問題：每格 2 分，共 20 分

1. 下面哪一個櫃子比較矮？請打✓。

ㄅ

( )

ㄆ



( )

2. 下面的圖，每個方格的邊長都一樣長，看圖回答問題，對的畫◯，錯的打✕。

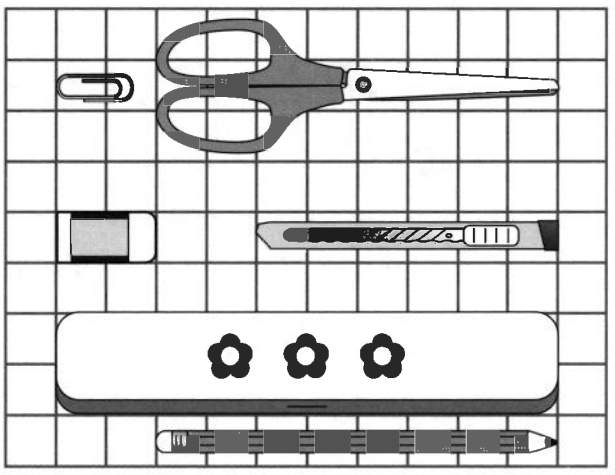

(1) ( ) 橡皮擦和 3 個方格一樣長。

(2) ( ) 鉛筆比鉛筆盒長。

(3) ( ) 剪刀和美工刀接起來和 14 個方格一樣長。

(4) ( ) 鉛筆和剪刀一樣長。

(5) ( ) 迴紋針比一個方格長。

3.

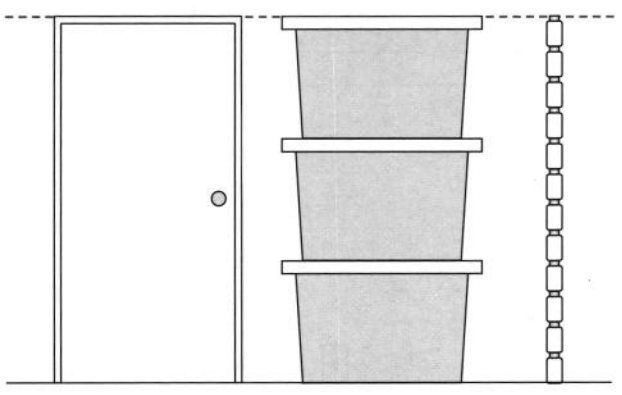

門　　箱子　　水壺

(1) 門和 ( ) 個箱子一樣高。

(2) 一個箱子和 ( ) 個水壺一樣高。

(3) 門和 ( ) 個水壺一樣高。

六 看圖寫出算式做做看：每題 4 分，共 16 分

1. 車頭和車身接起來和幾枝 一樣長？

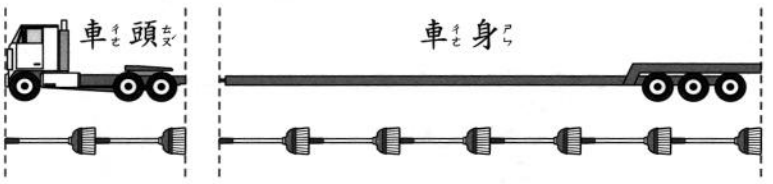

算式：

和 ( ) 枝 一樣長

2. 鉛筆和原子筆接起來和幾個 一樣長？

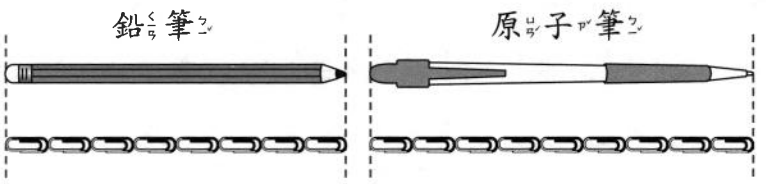

算式：

和 ( ) 個 一樣長

3. 琪琪把繩子剪下 3 枝鉛筆的長度，剩下的繩子和幾枝鉛筆一樣長？

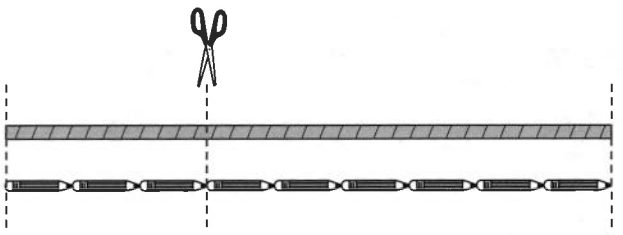

算式：

和 ( ) 枝鉛筆一樣長

4. 阿甜把緞帶剪下 5 個迴紋針的長度，剩下的緞帶和幾個迴紋針一樣長？

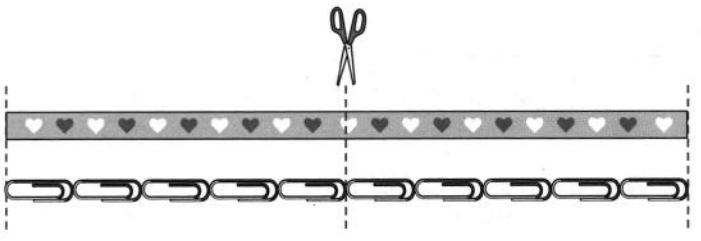

算式：

和 ( ) 個迴紋針一樣長

版權所有・翻印必究