翰林門市 數學 第04回 (1/2)

2、長度(2)

得分

一 看圖回答問題：每格 2 分，共 22 分

1.

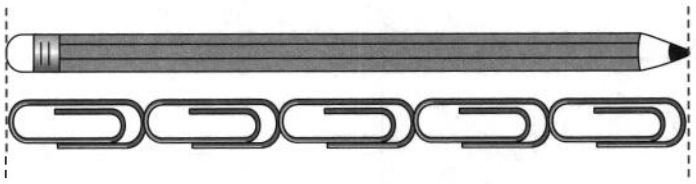

一枝鉛筆和（　　）個迴紋針一樣長。

2.

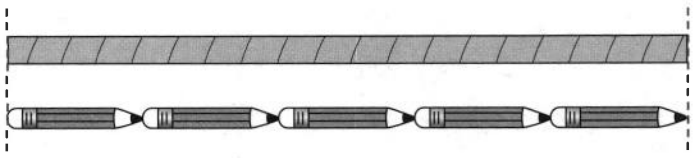

繩子和（　　）枝筆一樣長。

3.

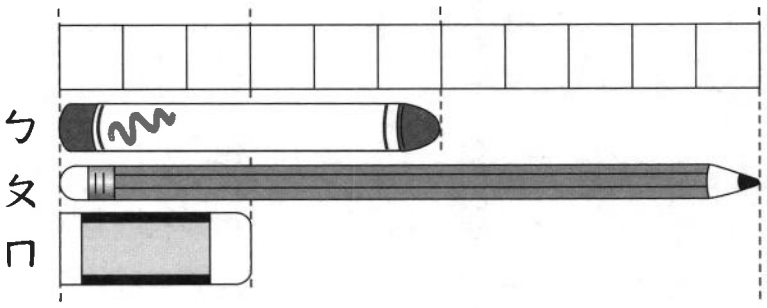

(1) ㄅ和（　　）個 □ 一樣長

(2) ㄆ和（　　）個 □ 一樣長

(3) ㄇ和（　　）個 □ 一樣長

(4) 最長的是（　　），最短的是（　　）。（填代號）

4. 一個 ● 代表一步，小婷分別走ㄅ、ㄆ、ㄇ三條路到秋千，數一數再回答下面問題。

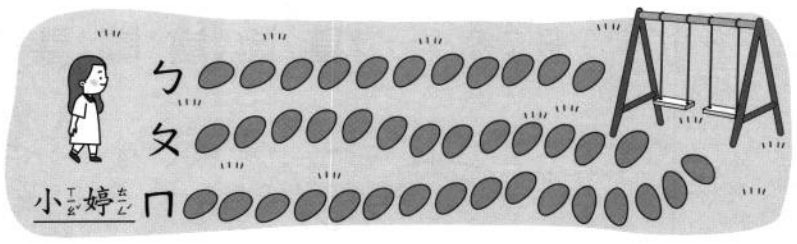

(1) 哪一條路最長？（　　）

(2) 哪一條路最短？（　　）

5.

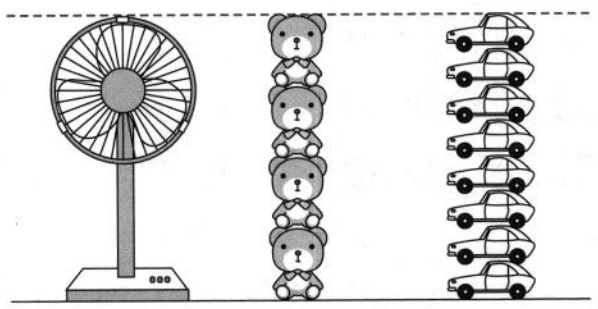

(1) 一隻玩具熊和（　　）輛玩具車一樣高。

(2) 一臺電風扇和（　　）輛玩具車一樣高。

二 看圖圈圈看：每答 4 分，共 20 分

1. 用三條不同長度的繩子量同一個水桶一圈，哪一條繩子最長？

ㄅ繩　　ㄆ繩　　ㄇ繩

（ㄅ，ㄆ，ㄇ）

2. 阿花用一樣的飲料罐疊高。比比看，哪一個物品最高？

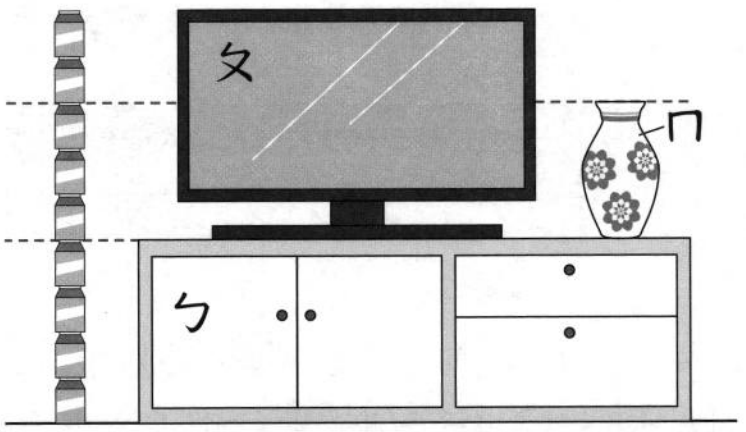

（ㄅ，ㄆ，ㄇ）物品

3. 下圖 4 條緞帶中，哪幾條一樣長？（每格邊長一樣長）

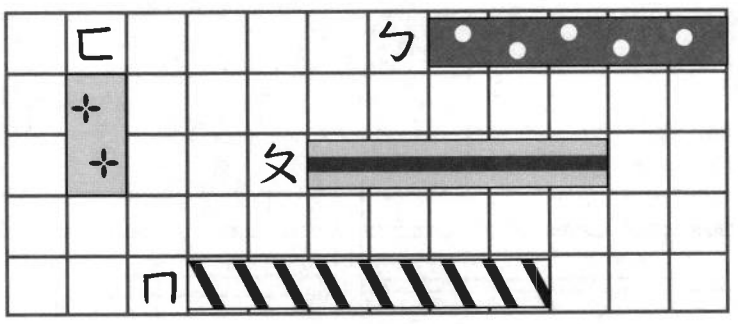

（ㄅ，ㄆ，ㄇ，ㄈ）

4. 涵涵和同學在公園玩鬼抓人，涵涵當鬼，她只能沿著地磚走，應該去抓誰，才可以最快結束遊戲？



（琪琪，君君，如如）

版權所有・翻印必究
【背面還有試題】

三 生活素養題：每格 4 分，共 12 分

▲ 依照提示，在（　　）裡填入可能地方的代號。

ㄅ花園　　ㄆ遊樂場　　ㄇ操場

提示
- ♡ 房子距離花園 12 步。
- ♡ 房子距離操場 30 步。
- ♡ 房子距離遊樂場 23 步。

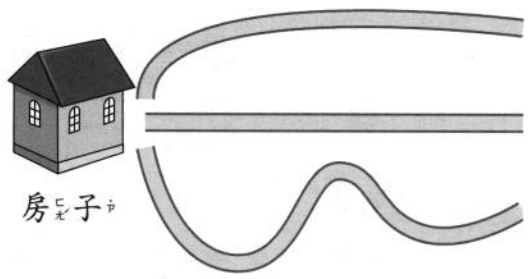

1.（　　）
2.（　　）
3.（　　）

四 看圖填填看：每格 2 分，共 26 分

1. 下面的繩子和幾格一樣長？（每格邊長一樣長）

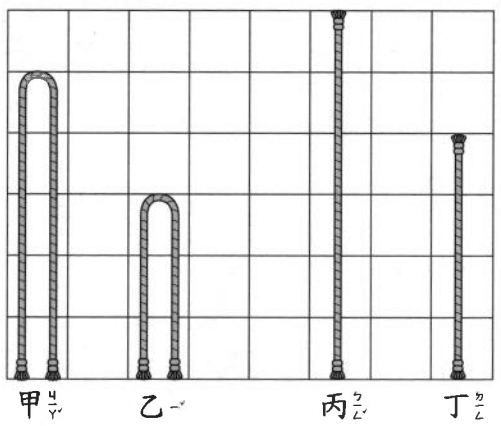

(1) 甲繩和（　　）格一樣長，
乙繩和（　　）格一樣長，
丙繩和（　　）格一樣長，
丁繩和（　　）格一樣長。

(2) 四條繩子中，（　　）繩最長，（　　）繩最短。

(3)（　　）繩和（　　）繩一樣長。

2. 下面彩帶和幾格一樣長？

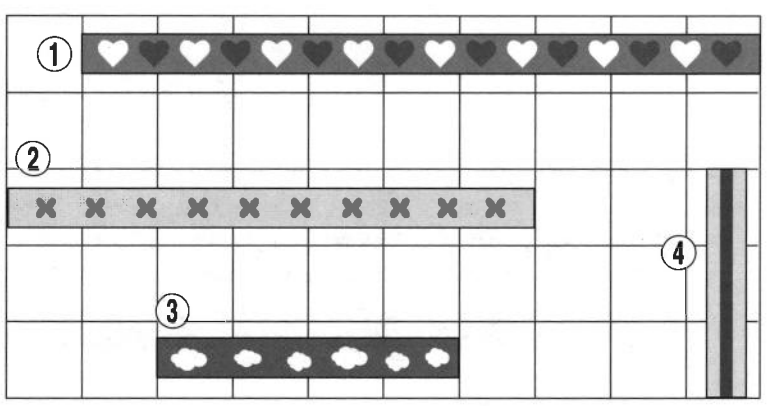

①（　　）格　②（　　）格
③（　　）格　④（　　）格

▲（　　）彩帶最長。（填編號）

五 看圖寫出算式做做看：每題 5 分，共 20 分

1. 下面 2 條緞帶接起來和幾個 ▬ 一樣長？

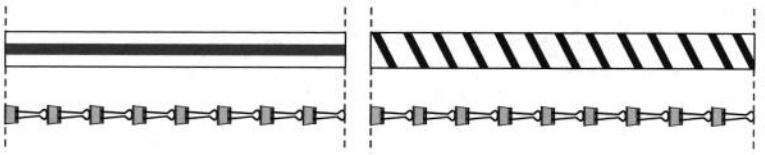

算式：

和（　　）個 ▬ 一樣長

2. 下面 2 條水管接起來和幾個 ▭ 一樣長？

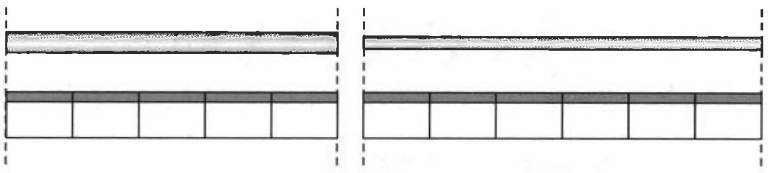

算式：

和（　　）個 ▭ 一樣長

3. 琪琪把 吃掉 5 個 的長度，還剩下幾個 長？

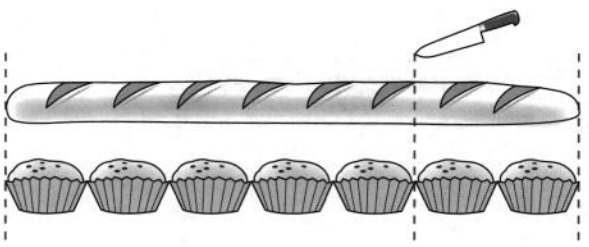

算式：

還剩下（　　）個 長

4. 下面的繩子打開拉直後和幾個星星一樣長？



算式：

和（　　）個星星一樣長

版權所有・翻印必究