翰林門市 數學 第05回 (1/2)

數學 一下 第5回

3、20以內的減法(1)

得分

一 先看圖做做看，再填入答案：每題2分，共8分

1. 

16－8＝（　　）

2. 

19－9＝（　　）

3. 

13－4＝（　　）

4. 

14－7＝（　　）

二 算算看、圈圈看：每答1分，共10分

1. 13－7＝（　　）
   13－6＝（　　）
   13－5＝（　　）
   13－4＝（　　）

   這些算式什麼地方的數相同？

   被減數　減數

2. 10－4＝（　　）
   11－4＝（　　）
   12－4＝（　　）
   13－4＝（　　）

   這些算式什麼地方的數相同？

   被減數　減數

三 連連看，把算式和答案連起來：每題2分，共10分

1. 15－5 •　　• ㄅ 4
2. 13－4 •　　• ㄆ 8
3. 12－8 •　　• ㄇ 9
4. 11－6 •　　• ㄈ 10
5. 17－9 •　　• ㄉ 5

四 畫○和畫掉做做看：每題3分，共18分

1. 14－6＝□
2. 11－9＝□
3. 16－7＝□
4. 18－8＝□
5. 12－7＝□
6. 17－7＝□

五 看圖填填看：每題2分，共4分

1. 櫻桃有15顆，草莓有8顆，櫻桃比草莓多幾顆？

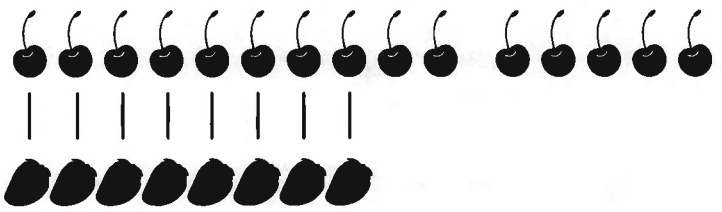

15－8＝□　　多□顆

2. 桌上有9顆蘋果，全部分給13個小朋友每人1顆，不夠幾顆？

蘋果 ○○○○○○○○○

小朋友 ○○○○○○○○○○○○○

13－9＝□　　不夠□顆

六 把答案是5的心算卡圈起來：每個1分，共6分

ㄅ 19－5　ㄆ 12－6　ㄇ 13－8

ㄈ 14－9　ㄉ 12－7　ㄊ 11－5

版權所有・翻印必究
【背面還有試題】

七 小朋友一起來收集玩具車，做做看：每答 1 分，共 20 分

1. 龍龍和欣欣誰的玩具車比較多？多幾輛？

算式：□ − □ = □

（龍龍，欣欣）比較多，

多 □ 輛

2. 花花和華華誰的玩具車比較少？少幾輛？

算式：□ − □ = □

（花花，華華）比較少

少 □ 輛

3. 欣欣和花花誰的玩具車比較多？多幾輛？

算式：□ − □ = □

（欣欣，花花）比較多，

多 □ 輛

4. 華華和龍龍誰的玩具車比較少？少幾輛？

算式：□ − □ = □

（華華，龍龍）比較少

少 □ 輛

八 寫出算式做做看：每題 4 分，共 24 分

1. 小狗有 13 隻，小貓有 5 隻，小狗和小貓相差幾隻？

相差（　　）隻

2. 爸爸煮了 18 顆水餃，哥哥吃了 9 顆，剩下幾顆水餃？

剩下（　　）顆水餃

3. 花園裡有 16 朵紅花和 6 朵黃花，紅花比黃花多幾朵？

多（　　）朵

4. 水缸裡有 14 條玩具魚，9 個小朋友每人撈起 1 條後，水缸裡還有幾條玩具魚？

還有（　　）條玩具魚

5. 冰箱裡有 15 瓶果汁和 7 瓶牛奶，牛奶比果汁少幾瓶？

少（　　）瓶

6. 盤子裡有 11 片肉，阿承吃了 2 片，還剩下幾片肉？

還剩下（　　）片肉

版權所有・翻印必究