數學 一下 第6回

3、20以內的減法(2)

得分

一 看圖填填看：每題2分，共8分

1. 蛋糕有8個，蛋塔有12個，蛋糕比蛋塔少幾個？

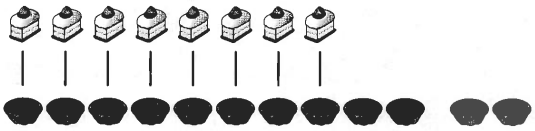

12－8＝□　　少□個

2. 有13顆球，分給5個小朋友每人1顆，剩下幾顆？

球　○○○○○○○○○○○　○○○

小朋友　○○○○○

13－5＝□　　剩下□顆

3. 企鵝有14隻，烏龜有9隻，企鵝比烏龜多幾隻？



14－9＝□　　多□隻

4. 有4個蝴蝶結，要分給11個女孩每人1個，蝴蝶結不夠幾個？

蝴蝶結　○○○○

女孩　○○○○○○○○○○○　○

11－4＝□　　不夠□個

二 把答案是7的心算卡圈起來：每答2分，共6分

ㄅ 17－7　　ㄆ 13－6　　ㄇ 18－9

ㄈ 12－5　　ㄉ 14－7

ㄊ 11－8　　ㄋ 14－5

ㄌ 12－4　　ㄍ 10－7　　ㄎ 15－6

三 算算看：每格1分，共10分

1. 13－4＝□	2. 16－6＝□
13－5＝□	15－6＝□
13－6＝□	14－6＝□
13－7＝□	13－6＝□
13－8＝□	12－6＝□

四 做做看：每小題5分，共20分

1. 冰箱裡有17瓶可樂，分給9個人每人1瓶，可樂比人多幾瓶？

算式：□－□＝□

多□瓶

2. 阿忠有6枝棒棒糖，小花有12枝，阿貝有11枝，小當有9枝。

(1) 阿忠和阿貝誰的棒棒糖比較多？多幾枝？

算式：□－□＝□

（阿忠，阿貝）比較多，

多□枝

(2) 小花和小當誰的棒棒糖比較少？少幾枝？

算式：□－□＝□

（小花，小當）比較少，

少□枝

(3) 阿忠和小花誰的棒棒糖比較多？多幾枝？

算式：□－□＝□

（阿忠，小花）比較多，

多□枝

版權所有・翻印必究
【背面還有試題】

五 看圖做做看：每格 2 分，共 32 分

1. 盤子裡原來有 12 顆草莓，被吃掉 7 顆後，還有幾顆？



□－□＝□

還有 □ 顆

2. 葉子上原來有 13 隻瓢蟲，飛走 6 隻後，還剩下幾隻？



□－□＝□

還剩下 □ 隻

3. 阿琪有 15 顆彈珠，阿尼有 9 顆彈珠，阿琪比阿尼多幾顆彈珠？

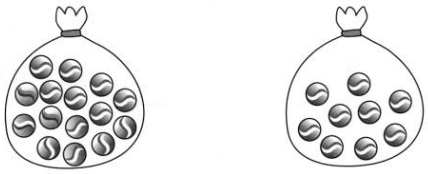

□－□＝□

多 □ 顆

4. 媽媽買了小籠包 12 顆、燒賣 5 顆，媽媽買的燒賣比小籠包少幾顆？

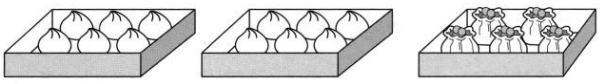

□－□＝□

少 □ 顆

六 寫出算式做做看：每題 4 分，共 24 分

1. 小偉有 14 張貼紙，送給 6 個朋友每人 1 張，還有幾張貼紙？

還有（　　）張貼紙

2. 樹上有 11 隻小鳥，樹下有 5 隻小鳥，樹上的小鳥比樹下多幾隻？

多（　　）隻

3. 小新跳繩跳 12 下，小葵跳 7 下，小新比小葵多跳了幾下？

多跳（　　）下

4. 桌上有 15 顆糖果，被吃掉 8 顆後，桌上剩下幾顆糖果？

剩下（　　）顆糖果

5. 陽臺上有 16 盆花，爸爸搬走 6 盆後，還剩下幾盆花？

還剩下（　　）盆花

6. 小湘班上有 18 個女生和 9 個男生，男生和女生相差幾個人？

相差（　　）個人

版權所有・翻印必究