翰林門市 數學 第07回 (1/2)

數學 一下 第7回

第一次成績考查

(第1~3單元)

得分

一 選出正確的答案：每題 2 分，共 6 分

1. (　　) 籃子裡有 4 顆紅球、7 顆黃球，籃子裡共幾顆球？
   ① 13 顆 ② 12 顆 ③ 11 顆。

2. (　　) 下圖的腳踏車和幾個磚塊一樣長？

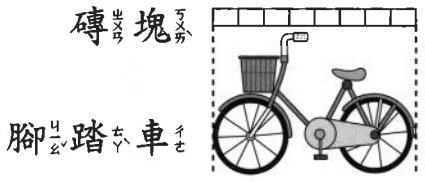

   ① 8 個 ② 6 個 ③ 7 個。

3. (　　) 一盒冰棒有 12 枝，吃掉 7 枝後，還有幾枝？
   ① 19 枝 ② 5 枝 ③ 8 枝。

二 看圖做做看，對的打✓：每格 3 分，共 18 分

1. 用同一條繩子來量 3 把不同長度的雨傘。

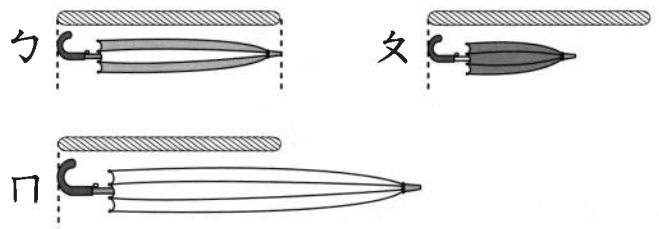

(1) ☐ ㄅ傘的長度最長。

(2) ☐ ㄆ傘的長度最短。

(3) ☐ ㄇ傘比ㄅ傘長。

2. 每格邊長一樣長。

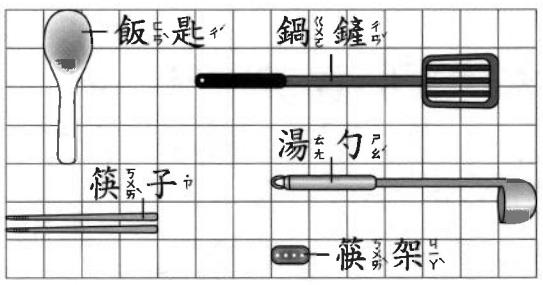

(1) ☐ 飯匙和筷子一樣長。

(2) ☐ 湯勺和飯匙接起來和 11 個筷架一樣長。

(3) ☐ 鍋鏟和 12 個筷架一樣長。

三 算算看：每格 2 分，共 24 分

1. 9+1=（　　）	2. 8+4=（　　）
9+2=（　　）	7+4=（　　）
9+3=（　　）	6+4=（　　）
3. 12−5=（　　）	4. 11−3=（　　）
13−5=（　　）	11−2=（　　）
14−5=（　　）	11−1=（　　）

四 連連看，把答案相同的算式連起來：每題 1 分，共 5 分

1. 6+7 •	• ㄅ 9+6
2. 8+7 •	• ㄆ 8+5
3. 2+5 •	• ㄇ 18−9
4. 3+6 •	• ㄈ 14−7
5. 4+8 •	• ㄉ 10+2

五 下面是小琪的模型玩具，看圖做做看：每題 2 分，共 6 分



1. 城堡和（　　）棵樹一樣高。
2. 一棵樹大約和（　　）個小女孩人偶一樣高。
3. 城堡大約和（　　）個小女孩人偶一樣高。

版權所有・翻印必究
【背面還有試題】

六 看圖填填看：每格 1 分，共 17 分

1. 池塘裡有 9 隻白天鵝和 7 隻黑天鵝，池塘裡共有幾隻天鵝？

9＋□＝□

2. 書架上原來有 8 本書，媽媽又放上 5 本，書架上現在有幾本書？

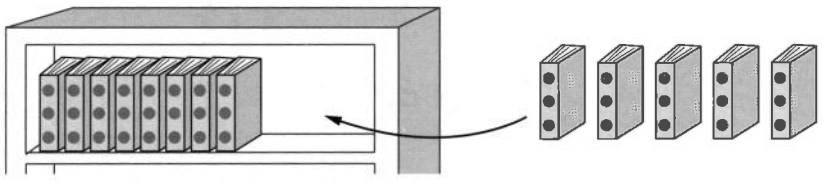

□＋□＝□

3. 小琪原來有 14 張貼紙，送給妹妹 6 張後，還有幾張？



□－□＝□

4. 桌上有 16 顆番茄和 6 顆水蜜桃，桌上的番茄比水蜜桃多幾顆？

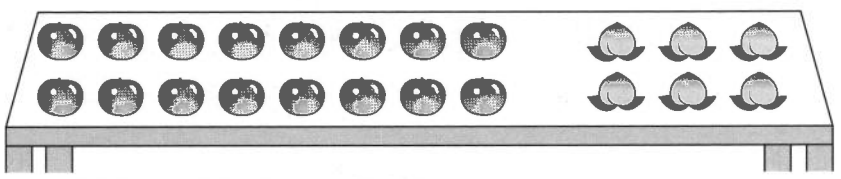

□－□＝□

5. 下面兩條繩子接起來和幾根木棍一樣長？

□＋□＝□

6. 阿姨把下面的棉線剪下 6 根針的長度，剩下的棉線和幾根針一樣長？

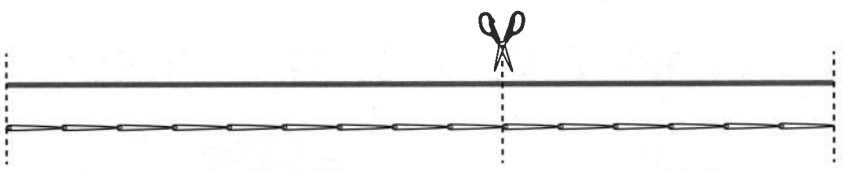

□－□＝□

七 寫出算式做做看：每題 4 分，共 24 分

1. 教室裡原有 6 個小朋友，又進來 7 個小朋友，教室裡現在有幾個小朋友？

有（　　）個小朋友

2. 嘉嘉原來有 8 顆草莓，爸爸又給了他 3 顆，嘉嘉現在共有幾顆草莓？

共有（　　）顆草莓

3. 辦公室裡有 9 個女老師和 5 個男老師，辦公室裡全部有多少個老師？

全部有（　　）個老師

4. 櫃子裡原來有 15 枝湯匙，爸爸拿走 7 枝後，還剩下幾枝？

還剩下（　　）枝

5. 公園裡有 13 個老人和 4 個小孩，公園裡的老人和小孩相差幾個人？

相差（　　）個人

6. 棋盤上有 19 顆黑棋和 9 顆白棋，白棋比黑棋少幾顆？

少（　　）顆

版權所有・翻印必究