翰林門市 數學 第08回 (1/2)

數學 一下 第8回

4、100以內的的數(1)

得分

一 圈出正確的數量：每題 3 分，共 12 分

1. 68

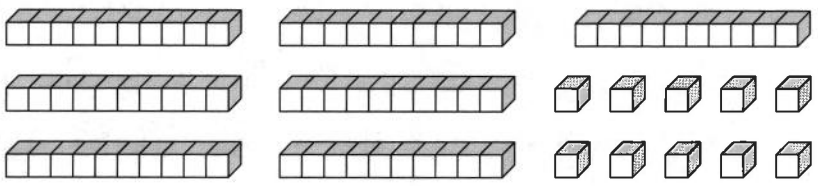

2. 35

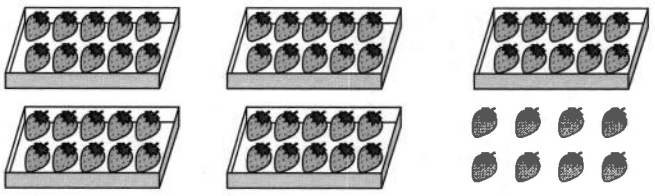

3. 49

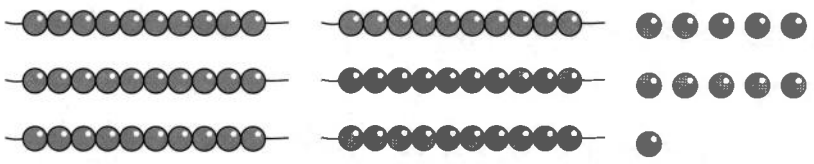

4. 93



二 數數看，有多少？每題 2 分，共 8 分

1.

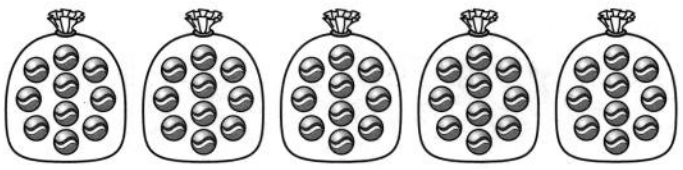

有（　　）顆

2.

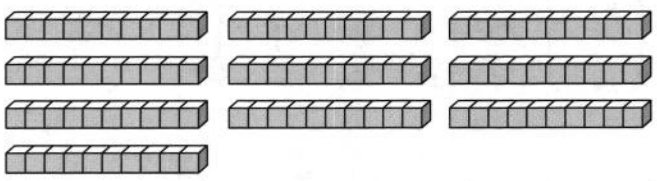

有（　　）個

3.



有（　　）枝鉛筆

4.



有（　　）朵花

三 按照數的順序填填看：每格 1 分，共 8 分

1. 42　44　　　　50　52

2. 　　90　80　70　　50

3. 60　　70　75　80　

4. 81　80　　78　77　

四 找出答案再連起來：每題 2 分，共 8 分

1. 十位數字是 3，個位數字是 5 ● ● ㄅ 85

2. 5 個十，8 個一 ● ● ㄆ 35

3. 個位數字是 3，十位數字是 5 ● ● ㄇ 58

4. 5 個一，8 個十 ● ● ㄈ 53

五 圈出比較小的數：每題 3 分，共 6 分

1. 46　64

2. 51　29

六 圈出比較大的數：每題 3 分，共 6 分

1. 88　96

2. 42　39

版權所有・翻印必究
【背面還有試題】

七 看圖數數看、填填看，並記在位值表上，再回答問題：每格 1 分，共 18 分

1. 一捆吸管有 10 枝。



(1) ☐ 捆和 ☐ 枝吸管合起來是 ☐。

(2)

十位	個位

(3) 加了 10 枝吸管是 ☐ 枝吸管。

2. 一串手環有 10 顆珠子。

(1) ☐ 串和 ☐ 顆珠子合起來是 ☐。

(2)

十位	個位

(3) 再加 1 顆珠子有 ☐ 顆。

3. 一袋有 10 片花片。

(1) ☐ 袋和 ☐ 個花片合起來是 ☐。

(2)

十位	個位

(3) 拿走 10 片還有 ☐ 片。

八 填填看：每格 2 分，共 8 分

1. 10 朵花捆成一束。
   (1) 19 朵花可以捆成 1 束又（　　）朵。
   (2) 8 個十和 19 個一，合起來是（　　）。
2. 比 56 多 10 的數是（　　）。
3. 比 70 少 1 的數是（　　）。

九 將百數表白色部分填上數字：每格 1 分，共 20 分

	2	3	4		6				
		13			16		18		20
					26				
							38		
41		43	44						
						57		59	60
				65			68		
	72								
			84	85					90
	92			95	96				

十 從 49 開始，依照數的順序連連看：共 6 分

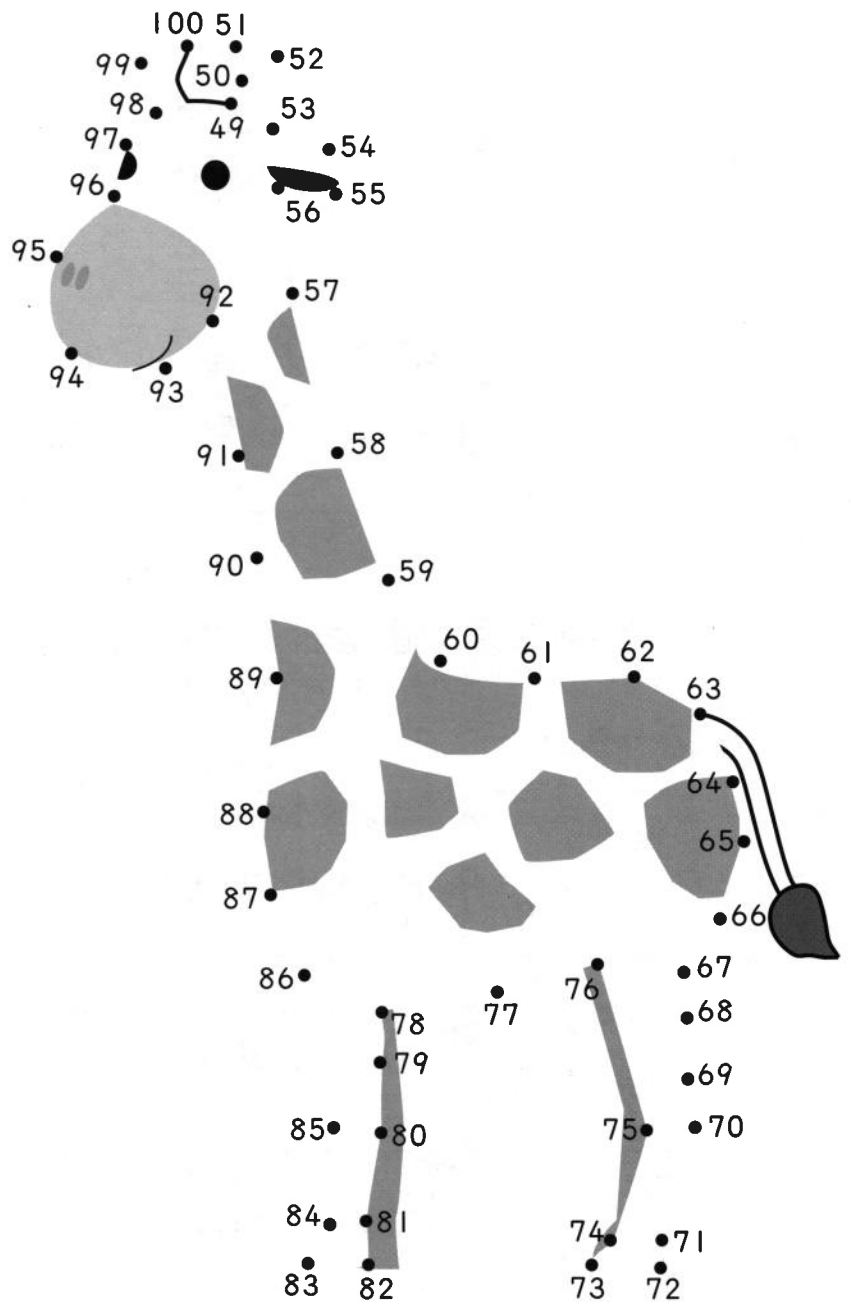

版權所有・翻印必究