翰林門市 數學 第09回 (1/2)

數學 一下 第9回

4、100以內的數(2)

得分

一 看數字圈出正確的數量：每題3分，共12分

1. 42

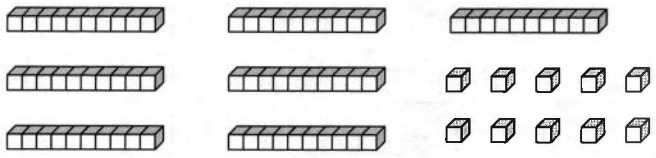

2. 77

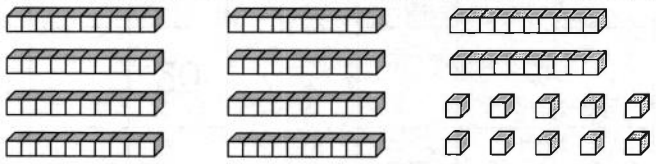

3. 98

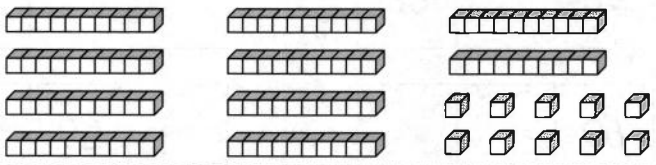

4. 60

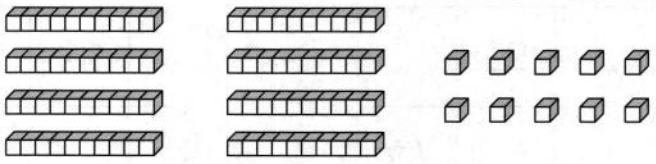

二 數數看有多少？再填填看：每格2分，共18分

1. 10顆彈珠裝成一袋。



(1) 14顆彈珠可以裝成1袋又（　　）顆。

(2) 3個十和14個一合起來與（　　）個十和4個一一樣多，是（　　）。

2. 10顆糖果裝成一罐。



(1) 27顆糖果可以裝成2罐又（　　）顆。

(2) 6個十和27個一合起來與（　　）個十和7個一一樣多，是（　　）。

3. 一張貼紙有10個星星。



有（　　）張和（　　）個合來有（　　）個星星。

三 數數看，比較多的打✓：每題2分，共12分

1.



（　　）　（　　）

2.

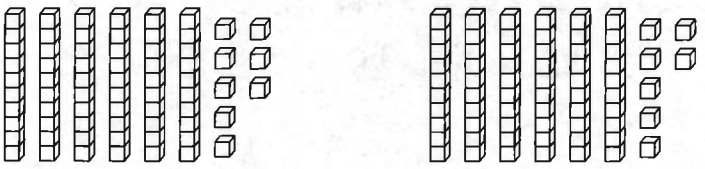

（　　）　（　　）

3.

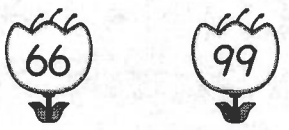

（　　）（　　）

4.

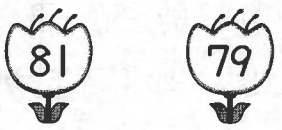

（　　）（　　）

5.

（　　）（　　）

6.

（　　）（　　）

四 做做看：每答2分，共18分

1. 5個一數，依照數的順序。



2. 2個一數，依照數的順序。



3.

十位	個位
5	8

58可以分成5個十和□個一。

4.

十位	個位
7	7

(1) 十位數的7代表7個（一，十）圈圈看。

(2) 個位數的7代表7個（一，十）圈圈看。

版權所有．翻印必究
【背面還有試題】

五 看圖填填看：每格 2 分，共 8 分

1. 數數看，有幾枝棒棒糖？

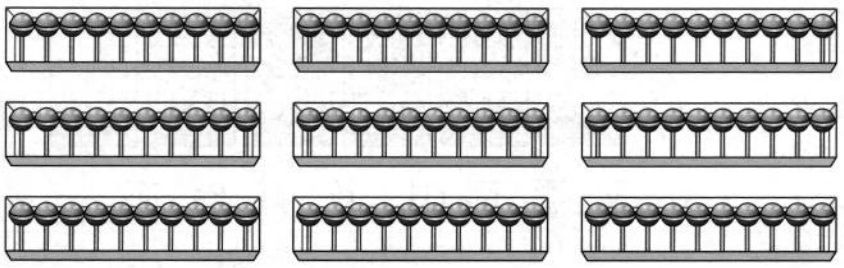

有（　　）枝棒棒糖

2. 數數看，有幾隻襪子？



有（　　）隻襪子

3. 數數看，有幾顆丸子？再回答問題。

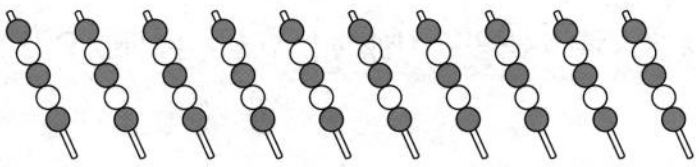

▲ 有（　　）顆丸子，如果拿走 1 顆，還有（　　）顆丸子。

六 下面是百數表的一部分，填入正確的數：每格 1 分，共 18 分

1.

		46
	55	
	65	

2.

47		
	58	
		69

3.

8		
		20
28		

4.

32		34
52		

七 連連看：每線 1 分，共 8 分

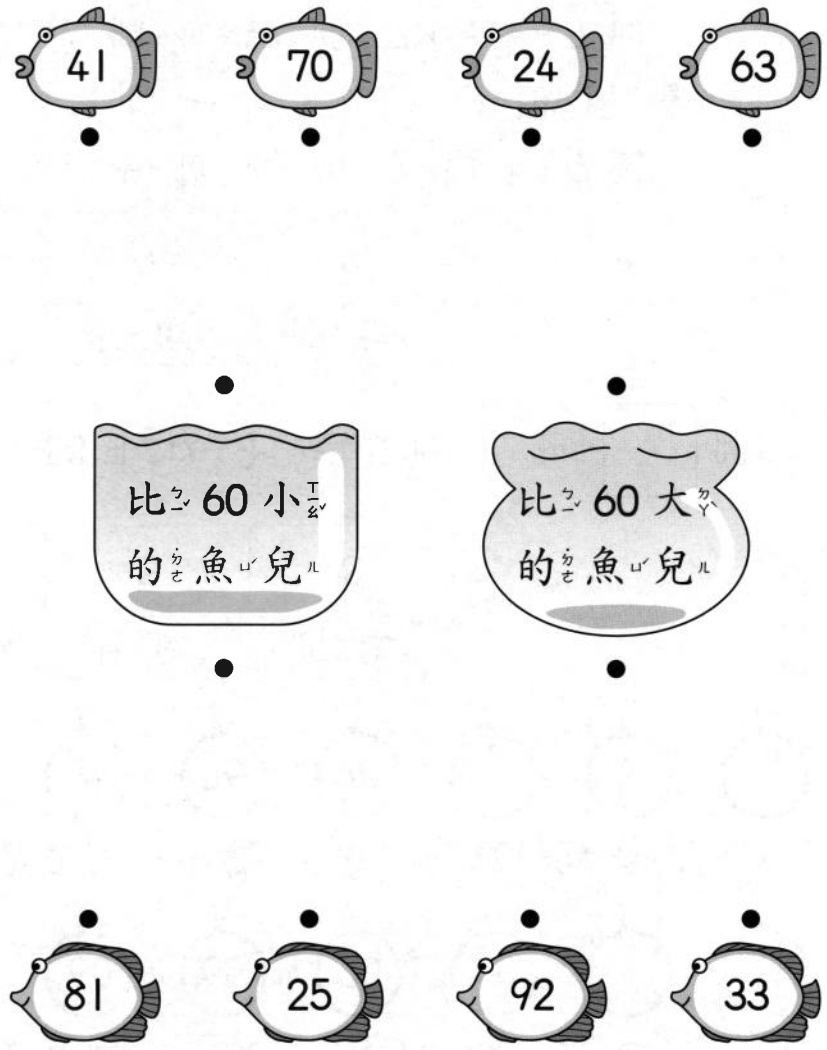

八 回答問題：每小題 2 分，共 6 分

1. 有一個二位數，它比 83 大，它的個位數字是 1，它的十位數字是多少？填看看。

十位	個位
	1

2. 小如跳繩跳了 64 下，宗翰跳的比小如多，佳宜跳的比小如少。

(1) 宗翰可能跳了幾下？圈圈看。

（ 60 下，64 下，74 下 ）

(2) 佳宜可能跳了幾下？圈圈看。

（ 60 下，64 下，70 下 ）

版權所有．翻印必究