數學 一下 第11回

期中成績考查(1)

(第1~5單元)

得分

一 選出正確的答案：每題3分，共12分

1. (　) 合作社早上賣出了6個包子，下午賣出9個包子，今天一共賣出幾個包子？ ①15個 ②14個 ③13個。

2. (　) 看下圖，2枝湯匙會和幾個□一樣長？

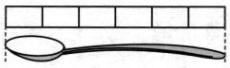

①6個 ②10個 ③12個。

3. (　) 妹妹原來有16顆彈珠，送給朋友7顆，還有幾顆彈珠？ ①6顆 ②9顆 ③12顆。

4. (　) 99再多1是多少？ ①89 ②98 ③100。

二 看圖填填看：每格2分，共12分

1. 剪刀有11把，小刀有7把，剪刀比小刀多幾把？

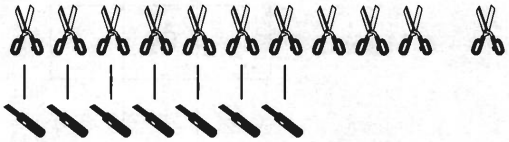

11－7=□　　多□把

2. 櫃子裡有8個杯子，分給14位小朋友每人一個，不夠幾個杯子？

杯子 ○○○○○○○○

小朋友 ○○○○○○○○○○ ○○○○

14－8=□　　不夠□個

3.

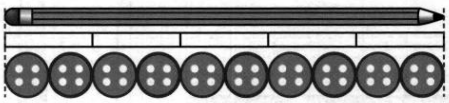

一枝鉛筆和(　　)個▭一樣長，也和(　　)個●一樣長。

三 算算看：每題1分，共8分

1. 7＋8=(　　)　2. 8＋7=(　　)

3. 12－7=(　　)　4. 13－8=(　　)

5. 7＋5=(　　)　6. 11－8=(　　)

7. 6＋8=(　　)　8. 13－9=(　　)

四 路線最長的打✓，路線最短的打×：每題2分，共6分

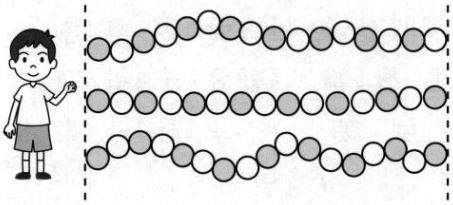

1. (　　)
2. (　　)
3. (　　)

五 比較大的數打✓，比較小的數打×：每題1分，共2分

1. (　　) 5個十、2個一
2. (　　) 9個一、3個十

六 下面的形體各是用幾個□排成的？數數看：每題3分，共18分

1.

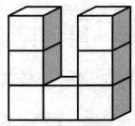

(　　)個

2.

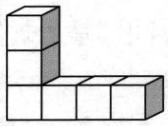

(　　)個

3.

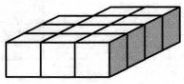

(　　)個

4.

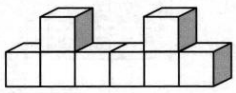

(　　)個

5.

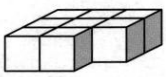

(　　)個

6.

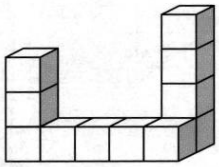

(　　)個

版權所有・翻印必究
【背面還有試題】

七 做做看：每格 2 分，共 20 分

1. 每格邊長一樣長。

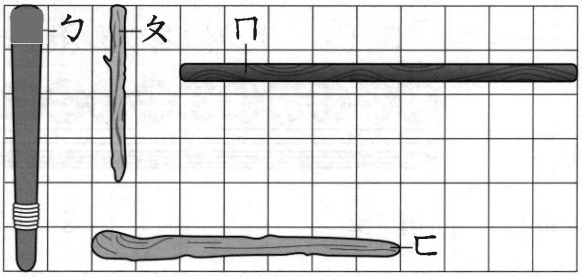

(1) ㄅ棍和ㄈ棍接起來和（　　）格一樣長。

(2) ㄇ棍鋸掉 3 格的長度後，和（　　）棍一樣長。

2. 下面是百數表的一部分，填入正確的數。

(1)

	53	
	63	

(2)

21		
	32	
41	42	

3. 數數看，有幾枝鉛筆？



有（　　）枝鉛筆

4. 數數看，有幾隻手套？

有（　　）隻手套

5. 數數看，有幾顆章魚燒？

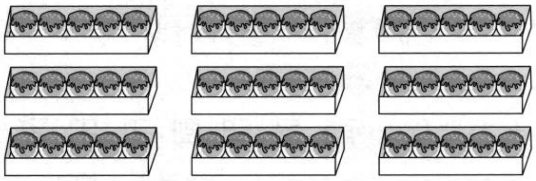

有（　　）顆章魚燒

八 左邊的圖形移動哪一塊後，會變成右邊的圖形？填入代號：每題 1 分，共 2 分

1.

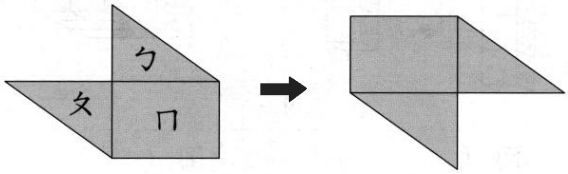

移動圖形（　　）

2.

移動圖形（　　）

九 寫出算式做做看：每題 4 分，共 20 分

1. 咩料超商今天上午賣出 5 杯咖啡，下午又賣出 9 杯咖啡，今天共賣出幾杯咖啡？

共賣出（　　）杯咖啡

2. 小琪原來有 6 本漫畫書，表姐又送給他 7 本漫畫書，小琪現在有幾本漫畫書？

有（　　）本漫畫書

3. 禮堂裡有紅、綠兩種椅子，紅椅子 8 張，綠椅子 4 張，禮堂裡全部有幾張椅子？

全部有（　　）張椅子

4. 冰箱裡原來有 19 瓶果汁，被喝掉 9 瓶後，剩下幾瓶？

剩下（　　）瓶

5. 花圃裡有 15 朵黃花、6 朵藍花，黃花和藍花相差幾朵？

相差（　　）朵

版權所有・翻印必究