數學 一下 第12回

期中成績考查(2)

(第1~5單元)

得分

一 選出正確的答案：每題 3 分，共 12 分

1. (　) 書架上的繪本有 5 本，小說有 7 本，合起來共有幾本書？ ① 13 本 ② 12 本 ③ 11 本。

2. (　) 用同一條繩子量小琪和小尼的手臂，誰的手臂比較長？

① 小琪 ② 小尼 ③ 一樣長。

3. (　) 投球比賽時，小華投進 8 球，小吉投進 11 球，小華比小吉少投進幾球？ ① 6 球 ② 4 球 ③ 3 球。

4. (　) 位值表中 85 的 8，代表 8 個　① 一 ② 十 ③ 不一定。

二 數數看，有多少？每格 2 分，共 10 分

1.

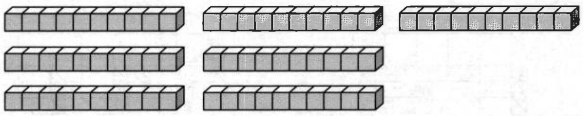

(　　) 個十是 (　　)

2.



(　　) 個十和 (　　) 個一合起來是 (　　)

三 按照數的順序填填看：每格 1 分，共 6 分

1. 20 25 30 ○ ○ ○

2. ○ ○ 70 72 74 ○

四 看圖填填看：每格 2 分，共 20 分

1. 藍筆有 9 枝，毛筆有 13 枝，藍筆比毛筆少幾枝？



13－9＝□　　少 □ 枝

2. 冰箱裡有 6 顆蘋果，分給 12 個小朋友每人 1 顆，還不夠幾顆？

蘋果 ○○○○○○

小朋友 ○○○○○○○○○○○○

12－6＝□　　還不夠 □ 顆

3.



打開後的繩子和 (　　) 個 ▭ 一樣長。

4.

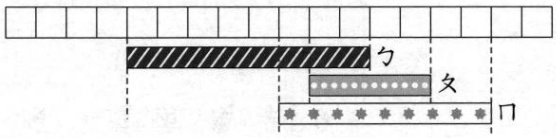

(1) ㄅ和 (　　) 個 □ 一樣長。

(2) ㄆ和 (　　) 個 □ 一樣長。

(3) ㄇ和 (　　) 個 □ 一樣長。

(4) ㄅ剪掉 5 個 □ 的長度，剩下的長度和 (　　) 個 □ 一樣長。

(5) ㄆ和ㄇ接起來和 (　　) 個 □ 一樣長。

五 算算看：每題 2 分，共 8 分

1. 4＋7＝ (　　)　2. 5＋8＝ (　　)

3. 7＋4＝ (　　)　4. 6＋8＝ (　　)

六 把比較大的數圈起來：每題 1 分，共 2 分

1. 57　75

2. 93　89

版權所有・翻印必究
【背面還有試題】

七 下面哪些形體是用 9 個 堆成的？圈圈看：每題 2 分，共 12 分

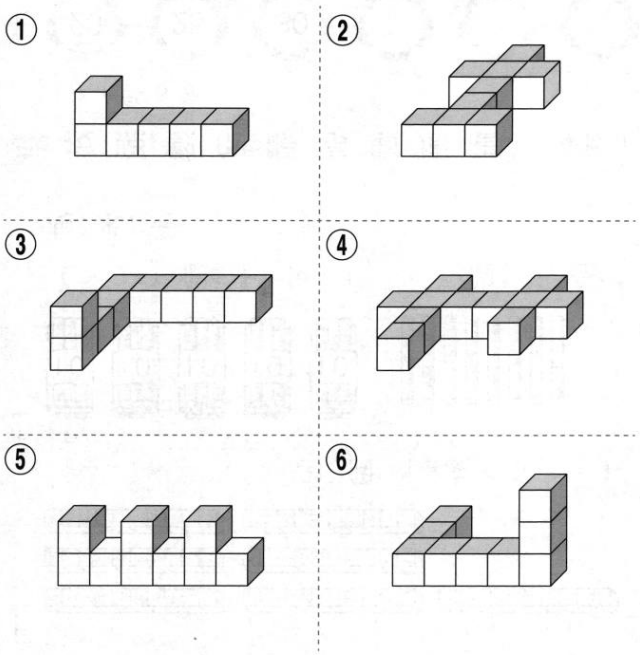

八 下面是園遊會各攤位間的磁磚數，看圖回答問題：每答 1 分，共 5 分



1. 從香雞排攤直接走到河粉攤要走（　　）個磁磚。
2. 從凍檸茶攤直接走到熱狗攤要走（　　）個磁磚。
3. 從熱狗攤直接走到香雞排攤要走（　　）個磁磚。
4. 從凍檸茶攤經過河粉攤，再到香雞排攤，共要走幾個磁磚？

算式：

（　　）個磁磚

九 上排的圖形缺了哪一個圖形？連連看：每題 3 分，共 9 分

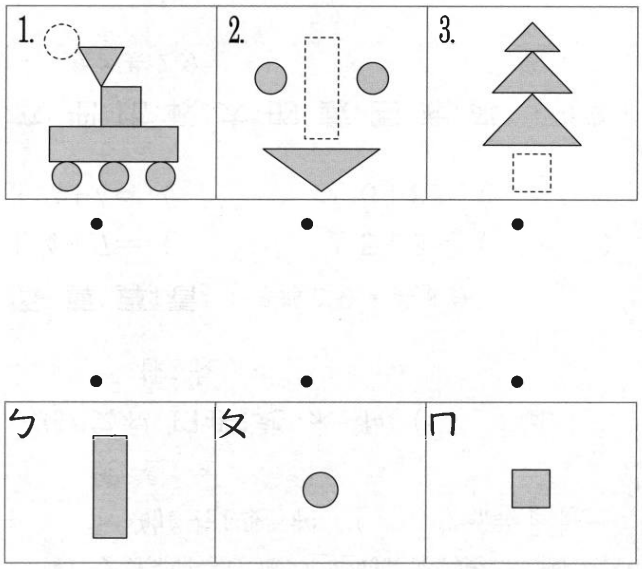

十 寫出算式做做看：每題 4 分，共 16 分

1. 花瓶裡有 14 朵花，被拿走 8 朵，還有幾朵？

還有（　　）朵

2. 阿勳家早上吃了 4 顆蘋果，下午又吃了 9 顆蘋果，共吃了幾顆蘋果？

共吃了（　　）顆蘋果

3. 教室裡有 15 位男生和 8 位女生，男生和女生相差幾位？

相差（　　）位

4. 弟弟有 6 張寶貝卡，哥哥又給他 9 張，弟弟現在有幾張寶貝卡？

有（　　）張寶貝卡

版權所有・翻印必究