數學 一下 第13回

6、數數看有多少元 (1)

得分

一 撲滿裡有幾元？填填看：每題 4 分，共 16 分

1.



（　　）元

2.



（　　）元

3.



（　　）元

4.



（　　）元

二 圈圈看、填填看：每題 4 分，共 8 分

▲ 天天和灰灰各買一份 25 元的蛋餅，兩人怎麼用不同的方法付錢？

① 天天的付法



付 ☐ 個

和 ☐ 個

② 灰灰的付法



付 ☐ 個

和 ☐ 個

三 圈圈看：每題 4 分，共 20 分

1. 花花錢包裡的錢可以買下面哪一個玩偶？

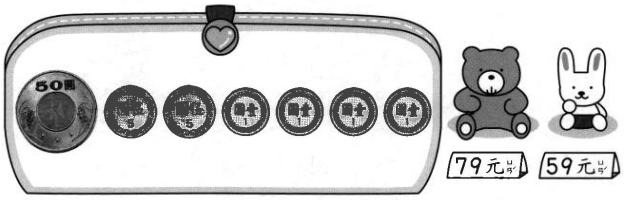

（熊熊，兔兔）玩偶

2. 1 個筆筒 68 元，誰錢包裡的錢夠買 1 個筆筒？

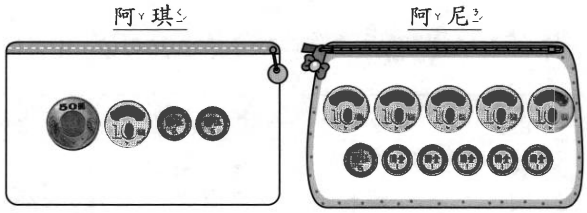

（阿琪，阿尼）錢包裡的錢

3. 小浩想買 1 盒 85 元的水彩筆，他錢包裡的錢夠付嗎？



（夠，不夠）付

4. 小琪想買下面的蛋糕，他錢包裡的錢夠不夠付呢？

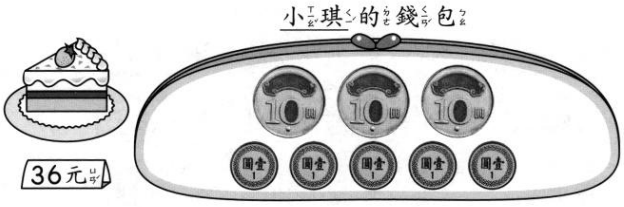

（夠，不夠）付

5. 買 1 個 79 元的髮夾，誰付錢的方式是對的？

甜甜



藍藍

（甜甜，藍藍）

版權所有・翻印必究
【背面還有試題】

四 小美、小香、小華各買一塊 35 元的蛋糕，怎麼付錢才會剛好？圈圈看：每題 4 分，共 12 分

1. 小美的錢：

2. 小香的錢：

3. 小華的錢：

五 用 ⑩ 表示 ，用 ① 表示 ，畫畫看：每題 4 分，共 16 分

1. 63 元

2. 27 元

2. 35 元

4. 42 元

六 看圖做做看：每小題 4 分，共 28 分

1.

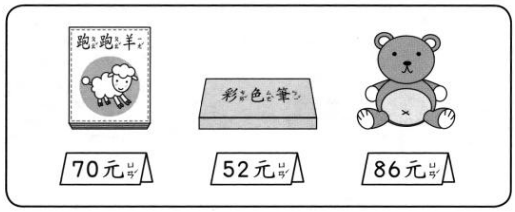

(1) 小香有 10 個 ，想買一個 ，最少要付（　　）個 。

(2) 小安有 1 個 ，夠不夠買一本 ？（ 夠 ， 不夠 ）

(3) 買一盒 ，要怎麼付錢，才會剛好？用 ⑩ 和 ① 畫畫看。

(4) 詹姆士有 80 元，哪一樣東西他買不到？
（ ， ， ）

2.



(1) 小丸子買一盒 ，她付 4 個 和 1 個 ，夠不夠？
（ 夠 ， 不夠 ）

(2) 小玉買一個 ，她付了 2 個，夠不夠？
（ 夠 ， 不夠 ）

(3) 買一個 ，要怎麼付錢，才會剛好？用 ⑩ 和 ① 畫畫看。

版權所有・翻印必究