數學 一下 第14回

6、數數看有多少元(2)

得分

一 數一數，有幾元？每題 4 分，共 16 分

1.

（　　）元

2.

（　　）元

3.

（　　）元

4.

（　　）元

二 把一樣多的錢連起來：每題 3 分，共 12 分

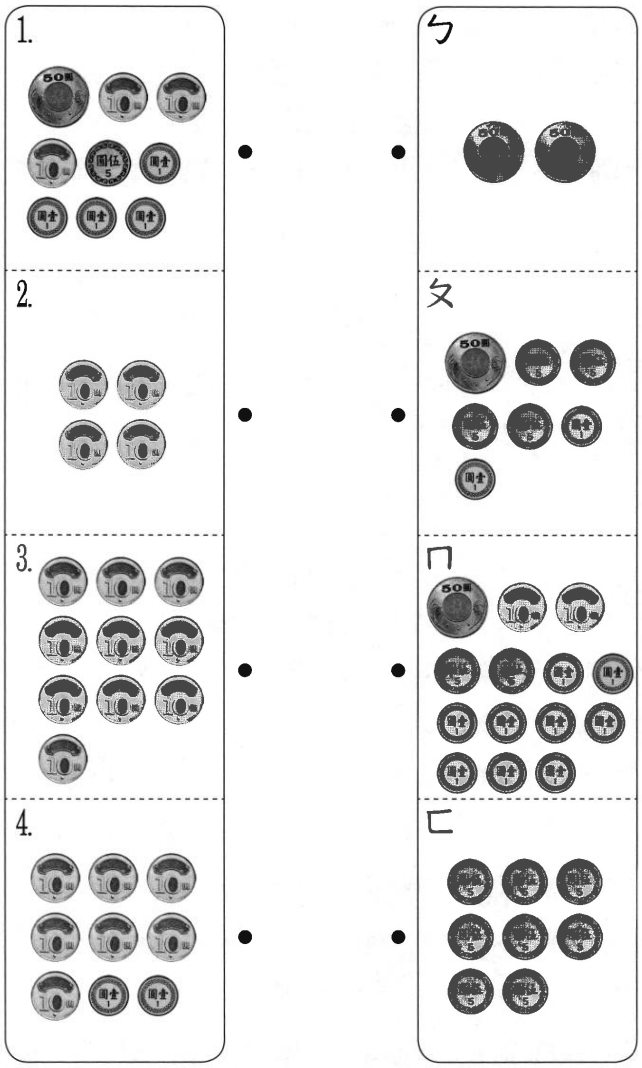

三 做做看：每答 2 分，共 18 分

1.

可換

↓

□個

2.

可換

↓

□個

3. 阿華用下面的錢買了一盒煎餃，一盒煎餃多少元？

□元

4. 媽媽買了一把 35 元的青菜，她付了 2 個 ，其他都用 來付，她付了幾個 ？圈圈看，再填填看。



□個

5. 小麥和圓圓各買一條 56 元的土司，兩人用不同的方法付錢。圈圈看。

小麥的付法



圓圓的付法

6. 一份熱狗賣 45 元，老皮和麥斯各買一份，兩人用不同的方法付錢。圈圈看。

老皮的付法

麥斯的付法

版權所有・翻印必究
【背面還有試題】

素四 看圖做做看：每題 4 分，共 12 分

1. 哥哥買一個，他付一個，夠不夠呢？

   （　夠　，　不夠　）

2. 阿宏想買一個，要怎麼付錢？用⑩和①畫畫看。

3. 佳晉買一個，他付一個，夠不夠呢？

   （　夠　，　不夠　）

五 數數看，有幾元？哪一個錢包裡的錢最多？在（　）裡打✓，哪一個錢包裡的錢最少？在（　）裡打×：每格 3 分，共 18 分

ㄅ



□ 元　（　　）

ㄆ



□ 元　（　　）

ㄇ

□ 元　（　　）

六 用⑩表示，用①表示，畫畫看：每小題 4 分，共 24 分

1.

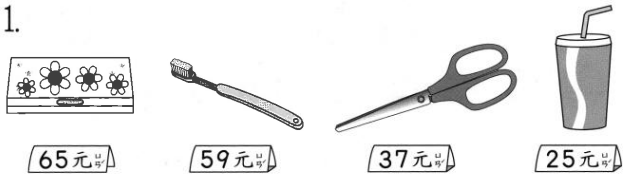

(1) 妹妹買一個，她可以怎麼付錢？

(2) 媽媽買了一把，要怎麼付錢才會剛好？

(3) 小華買一枝，要如何付錢才會剛好？

素(4) 阿琪買了一杯，拿出下面的錢，數數看，多拿的請打×，不夠的補畫上去。



2. 頌芝買了一杯 43 元的果汁，她要怎樣付錢才會剛好？

3. 阿芬買了一盒 52 元的餅乾，要怎麼付錢才會剛好？

版權所有・翻印必究