數學 一下 第15回

第二次成績考查

(第4~6單元)

得分

一 按照數的順序填填看：每格 1 分，共 12 分

1. 46 ☆ 48 49 ☆ ☆
2. ☆ 75 ☆ 85 90 ☆
3. 100 ☆ 80 70 ☆ ☆
4. 62 64 ☆ ☆ 70 ☆

二 數一數，有多少？比較多的在（　）裡打✓：每答 1 分，共 12 分

1.
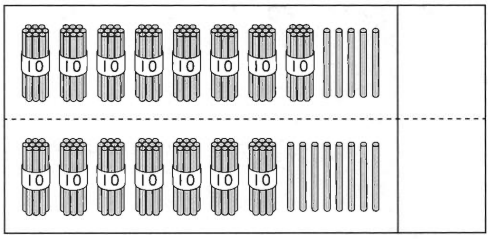
（　）
（　）

2.
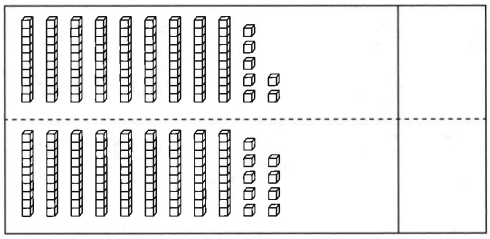
（　）
（　）

3.
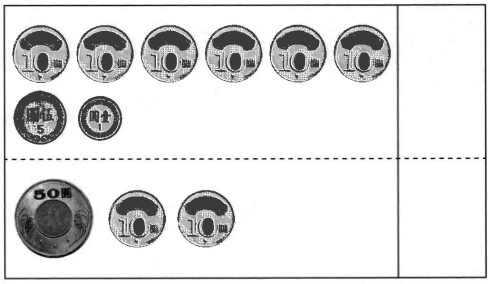
（　）
（　）

4.
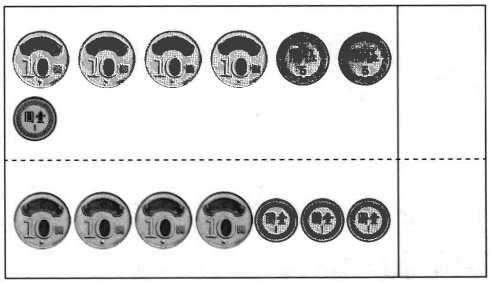
（　）
（　）

三 圈出正確的答案：每題 2 分，共 4 分

1. 哪一個 5 是表示 5 個十？

75　52　15

2. 哪一個 8 是表示 8 個一？

84　80　28

四 要放入哪一個圖形？連連看：每題 2 分，共 6 分

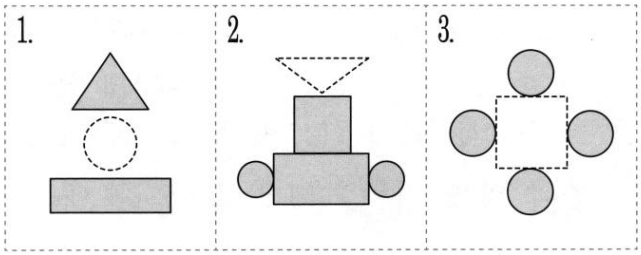

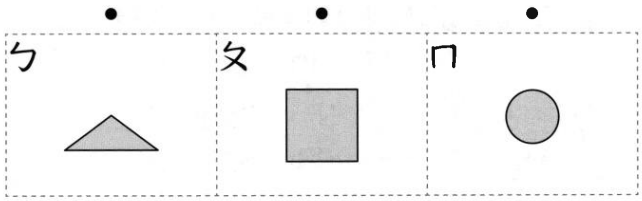

五 下面的圖形是用幾個 ◺ 拼出來的？數數看：每題 3 分，共 12 分

1.
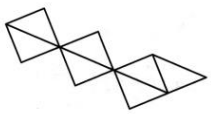
（　　）個

2.
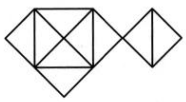
（　　）個

3.
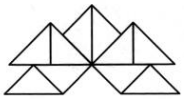
（　　）個

4.
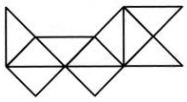
（　　）個

版權所有・翻印必究
【背面還有試題】

六 下面的形體各是用幾個堆成的？數數看：每題 2 分，共 8 分

1.

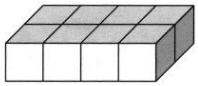

（　　）個

2.

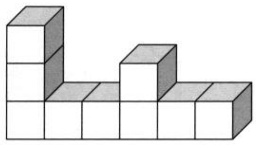

（　　）個

3.

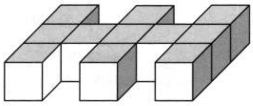

（　　）個

4.

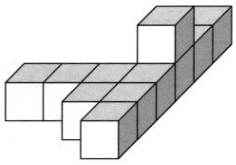

（　　）個

七 用 ⑩ 表示 ，① 表示 ，畫畫看：每題 3 分，共 18 分

1. 小瑄買一份 38 元的早餐，要怎麼付錢，才會剛好？

2. 宇樺買一個 82 元的水壺，要怎麼付錢，才會剛好？

3. 

4. 

5.

6. 

八 做做看：每答 2 分，共 28 分

1. 一串手鍊有 10 顆珠子。

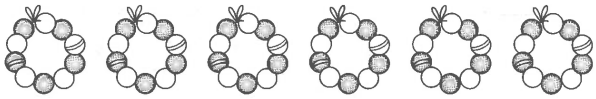

(1) 全部有（　　）顆珠子。

(2) 再多 1 串有（　　）顆珠子。

(3) 接第(2)題，再多 1 串，有（　　）顆珠子。

2. 一束花有 5 朵。

(1) 全部有（　　）朵花。

(2) 拿走 1 束還有（　　）朵花。

(3) 接第(2)題，再拿走 1 束，有（　　）朵花。

3. 下面的圖從圖 1 到圖 2 是移動了哪一塊圖形？圈圈看。

圖 1　　圖 2

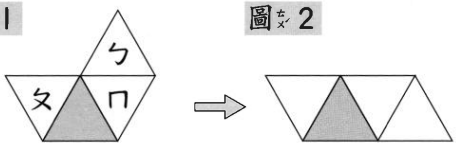

（ㄅ，ㄆ，ㄇ）

索 4. 一份蔥油餅賣 35 元，仙仙和阿龍各有 3 個 ，3 個 ，兩個人用不同方法付錢。圈圈看。

仙仙的付法



□ 個

□ 個

阿龍的付法

□ 個

□ 個

5. 宜靜想買一個 60 元的 ，她的錢夠嗎？圈圈看。



宜靜的錢

（夠，不夠）

版權所有・翻印必究