數學 一下 第18回

8、兩位數的加減法(1)

得分

一 看圖算算看：每格 1 分，共 8 分

1.

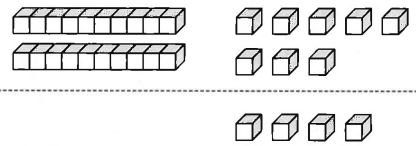

28＋□＝□

2.

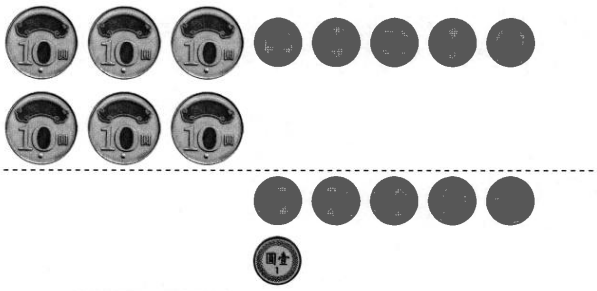

65＋□＝□

3.

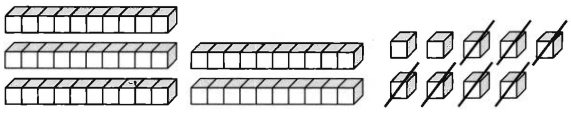

59－□＝□

4.



86－□＝□

二 把算式和答案連起來：每題 2 分，共 12 分

1. 22＋9 • • ㄅ 80
2. 59－13 • • ㄆ 31
3. 71＋9 • • ㄇ 97
4. 82－9 • • ㄈ 46
5. 62＋35 • • ㄉ 73
6. 23－6 • • ㄊ 17

三 畫⑩和①算算看：每題 3 分，共 24 分

1. 72＋13＝□
2. 59＋6＝□
3. 64＋9＝□
4. 41＋15＝□
5. 36－14＝□
6. 83－7＝□
7. 94－34＝□
8. 61－5＝□

四 算算看：每題 1 分，共 8 分

1. 43＋7＝（　　）
2. 55＋23＝（　　）
3. 29＋4＝（　　）
4. 84＋15＝（　　）
5. 65－6＝（　　）
6. 32－21＝（　　）
7. 91－8＝（　　）
8. 77－37＝（　　）

五 把答案比較大的算式圈起來：每題 4 分，共 8 分

1.

ㄅ 96－12　　ㄆ 96－13

2.

ㄅ 36＋11　　ㄆ 38＋11

版權所有・翻印必究
【背面還有試題】

六 生活素養題：每題 4 分，共 16 分

▲ 爸爸和琪琪買早餐，看圖寫出算式做做看。



1. 爸爸買了一杯 和一個 ，共花了多少元？

算式：

共花了（　　）元

2. 比 多多少元？

算式：

多（　　）元

3. 比 少多少元？

算式：

少（　　）元

4. 琪琪買一個 ，付了 3 個 10 元和 1 個 5 元錢幣，可以找回多少元？

算式：

找回（　　）元

七 寫出算式做做看：每題 4 分，共 24 分

1. 哥哥有 25 元，弟弟有 14 元，兩人一共有幾元？

算式：

共有（　　）元

2. 小婷用一條長 68 公分的紅色彩帶繞聖誕樹 1 圈後，用掉 15 公分的彩帶，還剩下多少公分的彩帶？

算式：

還剩下（　　）公分

3. 猴子園區裡有 28 隻猴子吃過香蕉，有 9 隻猴子還沒吃過香蕉，還沒吃過香蕉的猴子比吃過香蕉的少幾隻？

算式：

少（　　）隻

4. 教室裡有 14 位男生和 11 位女生，一共有幾位學生？

算式：

共有（　　）位學生

5. 公車上原有 41 位乘客，到站有 7 位下車，現在公車上還有幾位乘客？

算式：

還有（　　）位乘客

6. 有 47 個人在操場上玩球，又來了 12 個人，現在操場上全部有幾個人在玩球？

算式：

全部有（　　）個人

版權所有・翻印必究