翰林門市 數學 第19回 (1/2)

8、兩位數的加減法(2)

得分

一 看圖算算看：每格 1 分，共 8 分

1.

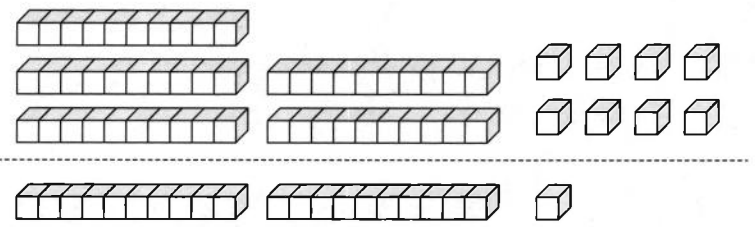

58＋□＝□

2.



37＋□＝□

3.

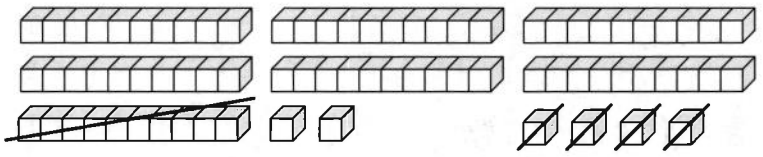

76－□＝□

4.



99－□＝□

二 畫⑩和①做做看：每題 3 分，共 18 分

1. 23＋32＝□
2. 51＋9＝□
3. 44＋34＝□
4. 79－15＝□
5. 54－30＝□
6. 93－8＝□

三 下面的算式答案對的在（　）裡打✓；答案錯的在（　）裡打×，再把對的答案填在□裡：每題 2 分，共 12 分

1. （　　）9＋71＝80：□
2. （　　）35＋5＝30：□
3. （　　）42－4＝38：□
4. （　　）32＋35＝67：□
5. （　　）78－28＝50：□
6. （　　）96－34＝26：□

四 算算看：每題 1 分，共 8 分

1. 46＋4＝（　　）
2. 77＋22＝（　　）
3. 39＋20＝（　　）
4. 64＋13＝（　　）
5. 87－13＝（　　）
6. 32－21＝（　　）
7. 98－70＝（　　）
8. 55－6＝（　　）

五 圈圈看：每小題 2 分，共 8 分

1. 把答案比較大的算式圈起來。

①

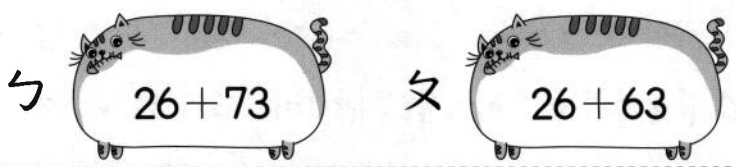

②

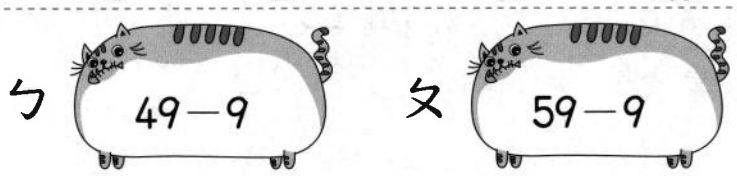

2. 把答案比較小的算式圈起來。

①



②



版權所有・翻印必究
【背面還有試題】

六 連連看，把答案相同的算式連起來：每題 2 分，共 12 分

1. 18＋7 •　　• ㄅ 99－21
2. 47＋31 •　　• ㄆ 96－9
3. 37＋50 •　　• ㄇ 45－20
4. 53＋8 •　　• ㄈ 91－8
5. 76＋7 •　　• ㄉ 82－41
6. 31＋10 •　　• ㄊ 74－13

七 看圖先畫 ⑩ 和 ① 做做看，再把算式記下來：每題 5 分，共 10 分

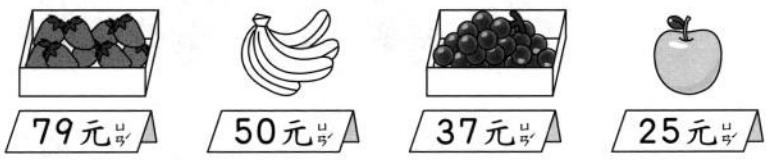

1. 買一串 和一顆 ，共要多少元？

算式：

共要（　　）元

2. 買一盒 比一盒 要多付多少元？

算式：

多付（　　）元

八 寫出算式做做看：每題 4 分，共 24 分

1. 書架上有 46 本故事書，小婷又放了 8 本，書架上現在有幾本故事書？

有（　　）本故事書

2. 籃子裡裝了 27 顆籃球和 9 顆排球，籃球和排球相差多少顆？

相差（　　）顆

3. 小琪有 75 元，買了一個 42 元的漢堡後，剩下多少元？

剩下（　　）元

4. 1 輛巴士有 42 個座位，2 輛巴士一共有幾個座位？

共有（　　）個座位

5. 阿勳這次數學考 89 分，比上次少 10 分，上次是考幾分？

（　　）分

6. 25 個小朋友，一人吃一根棒棒糖，還剩下 13 根棒棒糖，原來有幾根棒棒糖？

有（　　）根棒棒糖

版權所有・翻印必究