翰林門市 數學 第20回 (1/2)

9、分類整理(1)

得分

一 分分看，填填看：每格 3 分，共 18 分

1. 農場裡有一些牛和綿羊，先數一數，再填填看。



(1)

	共有 ☐ 隻
	共有 ☐ 隻

(2)

在圍欄裡的動物	☐ 隻
不在圍欄裡的動物	☐ 隻

2. 下面有一些玉米，數一數，再填填看。



玉米田裡的玉米	☐ 根
籃子裡的玉米	☐ 根

二 先數數看，再做做看：表格每格 2 分，其餘每答 1 分，共 34 分

1. 用「正」畫記並寫出數量。



燈泡	畫記	數量
		☐ 個
		☐ 個
		☐ 個
		☐ 個

2.

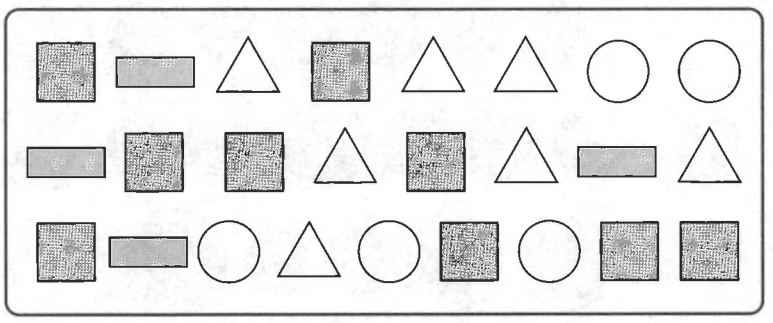

(1) 用○畫記並寫出數量。

圖形	畫記	數量
		☐ 個
		☐ 個
		☐ 個
		☐ 個

(2) 最多的是

(， ， ，)。

(3) 最少的是

(， ， ，)。

版權所有・翻印必究
【背面還有試題】

做做看：每答 1 分，共 14 分

1.



(1) 用「正」畫記。

種類	畫記

(2) 有（　　）隻，

有（　　）隻，

有（　　）朵。

素 2. 1 年 3 班每個人一票，票選最喜歡看的卡通影片，結果記錄在下面。

種類	紀錄	票數
海綿阿寶	正正下	□ 票
哆拉 B 夢	正正丅	□ 票
麵包英雄	正丅	□ 票

(1) 最喜歡看《海綿阿寶》的有（　　）個人。

(2) 最喜歡看《哆拉 B 夢》的有（　　）個人。

(3) 最喜歡看《麵包英雄》的有（　　）個人。

(4) 下面哪一種卡通影片比較多人喜歡？

（ 海綿阿寶，哆拉 B 夢 ）

(5) 全部人都投一票，1 年 3 班共有（　　）個人。

四 先完成表格，再填填看：每格 2 分，共 18 分

圖形	△	□	○	■	▲
用「正」畫記		正 下	丅		
數量	7 個	個	個	3 個	5 個

1. 灰色圖形共有（　　）個。
2. 白色圖形共有（　　）個。
3. 三角形共有（　　）個。
4. 正方形共有（　　）個。

五 看圖填填看：每格 2 分，共 16 分



1. ● 有（　　）個，共是（　　）元。
2. ● 有（　　）個，共是（　　）元。
3. 有（　　）個，共是（　　）元。
4. 有（　　）個，共是（　　）元。

版權所有・翻印必究