數學 一下 第21回

9、分類整理(2)

得分

一 看圖做做看：每格 2 分，共 28 分

1.

(1) 用飲料種類分類。

全部有	瓶
全部有	瓶

(2) 用飲料放的位置分類。

在冰箱裡的飲料	瓶
在桌子上的飲料	瓶

2.



(1) 用「正」畫記並寫出數量。

動物				
用「正」畫記				
數量	隻	隻	隻	隻

(2) 全部有（　　）種動物。

(3) 四隻腳的動物共有（　　）隻。

二 先完成表格，再圈圈看、填填看：每答 2 分，共 28 分

1.

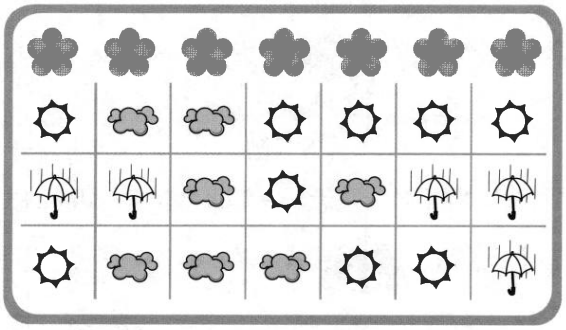

(1) 用「正」畫記並寫出數量。

天氣	用「正」畫記	天數
		天
		天
		天

(2) 哪一種天氣的天數最多？

（　　，　　，　　）

(3) 哪一種天氣的天數最少？

（　　，　　，　　）

2. 花園裡開滿了花，如下面的畫記。

種類	畫記	數量
	○○○○○	朵
	○○○○○○○	朵
	○○○○○○○○○	朵
	○○○○	朵

(1) 哪一種花最多？

（　　，　　，　　，　　）

(2) 哪一種花最少？

（　　，　　，　　，　　）

版權所有・翻印必究
【背面還有試題】

三 下面是琪琪、尼尼和君君的投球紀錄，○表示投中，×表示沒投中，先完成表格，再圈圈看：每答 1 分，共 8 分

琪琪	○	○	×	○	×	○	○
尼尼	○	○	×	○	○	○	○
君君	○	×	○	×	○	×	○

1. 每個人投中幾次？用「正」畫記並寫出數量。

人名	用「正」畫記	數量
琪琪		☐ 次
尼尼		☐ 次
君君		☐ 次

2. 投中最多的是

（ 琪琪 ， 尼尼 ， 君君 ）

3. 投中最少的是

（ 琪琪 ， 尼尼 ， 君君 ）

四 下面是抽屜裡各種筆的數量紀錄表，把正確的敘述打✓，錯的打×：每題 2 分，共 10 分

種類				
畫記	下	正下	正	正一

1. ☐ 的數量最多。
2. ☐ 的數量最少。
3. ☐ 有 4 枝。
4. ☐ 比 多 5 枝。
5. ☐ 全部的筆合起來共有 22 枝。

五 下面是足球隊吉祥物票選的結果，每個人一票，先完成表格，再做做看：每答 2 分，共 26 分



1. 用「正」畫記並寫出數量。

吉祥物	用「正」畫記	票數
		☐ 票
		☐ 票
		☐ 票
		☐ 票

2. 投給 的有（　　）個人。
3. 投給 的有（　　）個人。
4. 投給哪一種吉祥物的人數最多？

（ ， ， ， ）

5. 投給哪一種吉祥物的人數最少？

（ ， ， ， ）

6. 每個人都投一票，足球隊共有（　　）個人。

版權所有・翻印必究