翰林門市 數學 第23回 (1/2)

數學 一下 第23回

期末成績考查(1)

(第6~9單元)

得分

一 數數看，錢包裡有幾元？填填看：每題 5 分，共 10 分

1.

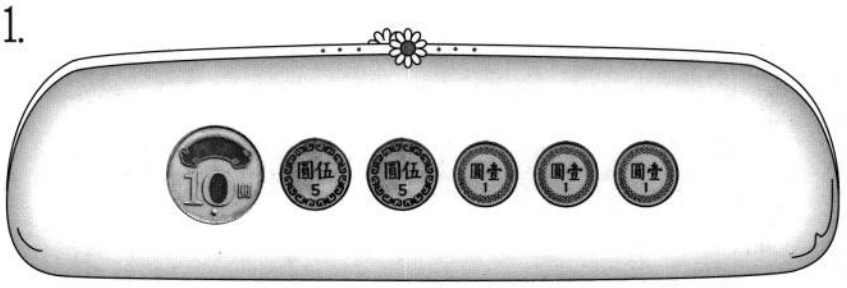

(　　) 元

2.

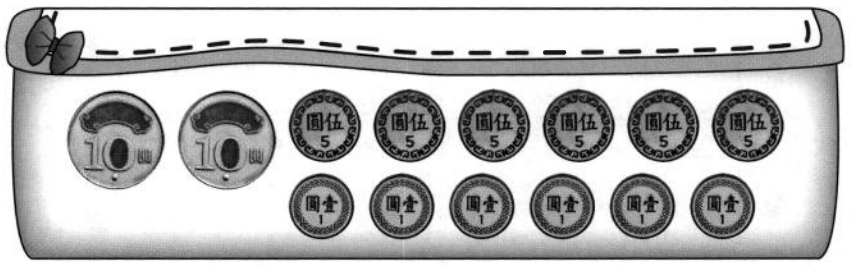

(　　) 元

二 看圖圈圈看：每題 5 分，共 10 分

1. 嘉嘉想買 1 個 88 元的筆袋，他錢包裡的錢夠不夠呢？



(夠，不夠)

2. 買 1 個 45 元的漢堡，誰付錢的方式是對的？

小甜



小藍



(小甜，小藍)

三 用⑩表示 ，①表示 ，畫畫看：6 分

▲ 琪琪想買 1 個 63 元的小熊維尼玩偶，她可以怎麼付錢？

四 看下面日曆填填看：每格 1 分，共 12 分

1. 右邊的日曆是

(　　) 月 (　　) 日星期 (　　)。

2.

(1) 左邊是今天的日曆，今天是

(　　) 月 (　　) 日星期 (　　)。

(2) 昨天是 (　　) 月 (　　) 日星期 (　　)。

(3) 明天是 (　　) 月 (　　) 日星期 (　　)。

五 看下面的月曆填填看：每格 1 分，共 14 分

9月

日	一	二	三	四	五	六
					1	2
3	4	5	6	7	8	9
10	11	12	13	14	15	16
17	18	19	20	21	22	23
24	25	26	27	28	29	30

1. 這個月是 (　　) 月。
2. 這個月有 (　　) 個星期日、(　　) 個星期三。
3. 這個月的第 1 天是 (　　) 月 (　　) 日星期 (　　)，最後一天是 (　　) 月 (　　) 日星期 (　　)。
4. 小蘭每個星期日要去養老院當志工，這個月要去的日期是 (　　) 月 (　　) 日、(　　) 日、(　　) 日和 (　　) 日。

版權所有・翻印必究
【背面還有試題】

六 做做看：表格 12 分，其餘每答 2 分，共 24 分

1.



(1) 灰色衣服有（　　）件，
白色衣服有（　　）件。

(2) 有圖案的衣服有（　　）件，沒有圖案的衣服有（　　）件。

2. 數一數，並用「正」畫記並寫出數量，再圈圈看。



動物	用「正」畫記	數量
		隻
		隻
		隻
		隻
		隻
		隻

(1) 數量最少的是
（ ， ， ）。

(2) 數量最多的是
（ ， ， ）。

七 寫出算式做做看：每題 4 分，共 24 分

1. 冰箱裡有 60 個葡萄果凍和 40 個草莓果凍，葡萄果凍和草莓果凍相差幾個？

相差（　　）個果凍

2. 操場上有 4 個人在跑步，有 37 人在玩躲避球，操場上共有幾個人？

共有（　　）個人

3. 老師將 34 張圖畫紙分給小朋友，每個小朋友分到一張，有 5 個小朋友沒分到，全部有幾個小朋友？

有（　　）個小朋友

4. 池塘裡有 28 隻青蛙，跳走 16 隻後，還剩下多少隻青蛙？

還剩下（　　）隻青蛙

5. 圖書館裡原來有 64 個人，有 6 個人離開了，圖書館裡還有幾個人？

還有（　　）個人

6. 小包有 53 張遊戲卡，小柏有 32 張遊戲卡，兩人合起來有幾張遊戲卡？

合起來有（　　）張遊戲卡

版權所有・翻印必究