數學 一下 第24回

期末成績考查(2)

(第6~9單元)

得分

一 看圖填填看：每題3分，共9分

1. 小恩買了一包，他付了3個和1個，其他都用來付。他付了（　　）個。

2. 小平有2個、2個和2個。他的錢夠買一杯嗎？

（夠，不夠）

3. 若白想買一個，他付了1個和1個，還需要付（　　）個才會剛好。

二 先用「正」畫記並寫出數量，再做做看：每答1分，共14分

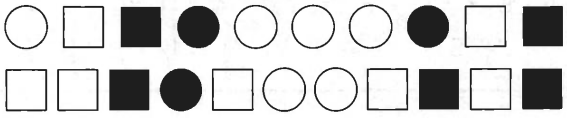

種類	○	●	□	■
用「正」畫記				
數量（個）				

1. （○，●，□，■）最多。
2. （○，●，□，■）最少。
3. 用顏色分，灰色的有（　　）個，白色的有（　　）個。
4. 用形狀分，圓形有（　　）個，正方形有（　　）個。

三 看日曆和月曆填填看：每格1分，共11分

1.

左邊是昨天的日曆，明天是（　　）月（　　）日星期（　　）。

2.

6月

日	一	二	三	四	五	六
				1	2	3
4	5	6	7	8	9	10
11	12	13	14	15	16	17
18	19	20	21	22	23	24
25	26	27	28	29	30	

(1) 6月的第一天是（　　）月（　　）日星期（　　），最後一天是（　　）月（　　）日星期（　　）。

(2) 這個月有（　　）個星期二和（　　）個星期五。

四 填填看：每格2分，共20分

1.

可換

□個1元

2.

可換

□個10元

3.



可換

□個50元

4.



可換

□個5元

5. 46＋7＝（　　）
6. 27＋50＝（　　）
7. 63＋25＝（　　）
8. 59－34＝（　　）
9. 32－7＝（　　）
10. 98－40＝（　　）

版權所有・翻印必究
【背面還有試題】

五 下面是豪好吃餐館 12 月的每日特餐和餐點價格，看圖做做看：共 46 分

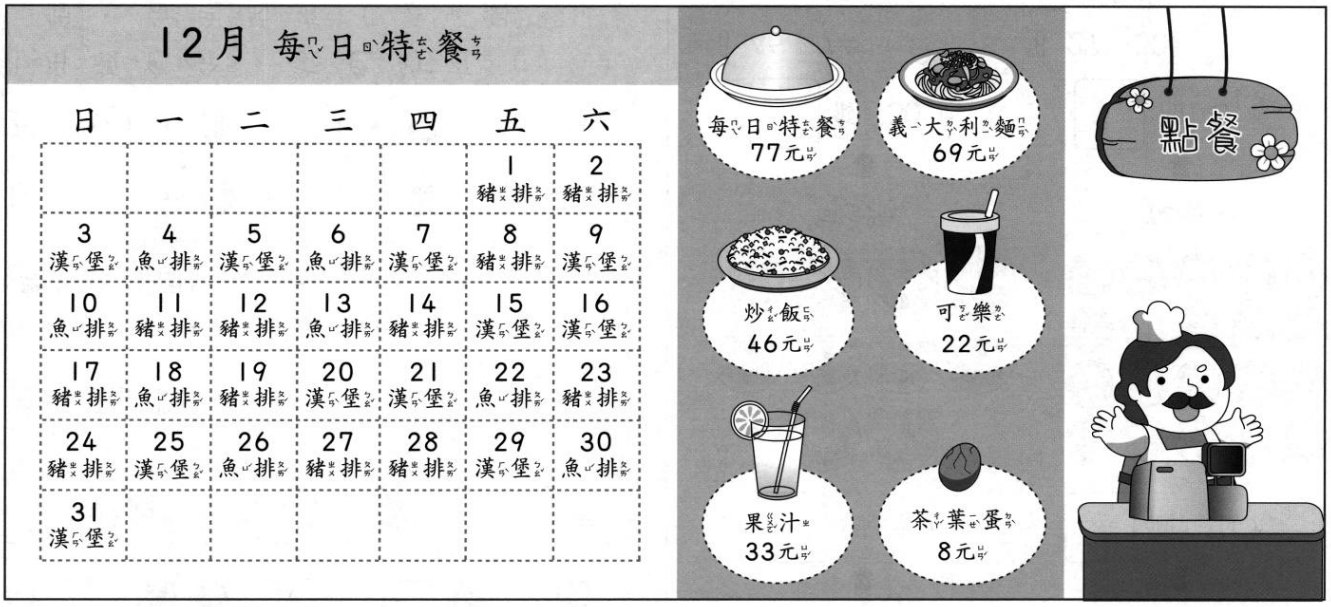

1. 12 月共有（　　）天。（3 分）

2. 12 月 26 日是祥祥生日，他們全家到豪好吃餐館慶生，這天是星期（　　）。（3 分）

3. 可欣在 12 月 19 日當天到豪好吃餐館吃飯，當天的每日特餐是什麼？（3 分）

（豬排，漢堡，魚排）

4. 家樺想吃的每日特餐是漢堡，他應該在下面哪一天去豪好吃餐館吃飯呢？（4 分）

（12 月 3 日，12 月 30 日）

5. 用「正」畫記特餐的天數。(6 分)

每日特餐	畫記	數量
豬排		天
漢堡		天
魚排		天

6. 每日特餐天數最多的是

（豬排，漢堡，魚排）。(3 分)

7. 每日特餐天數最少的是

（豬排，漢堡，魚排）。(3 分)

8. 12 月 17 日星期日這天，爸爸買了 1 份每日特餐和 1 杯可樂，共花多少元？（4 分）

共花（　　）元

9. 一份義大利麵比一份炒飯多幾元？（4 分）

多（　　）元

10. 媽媽買了一顆茶葉蛋，付 1 個 50 元錢幣，可以找回多少元？（4 分）

找回（　　）元

11. 小琪買了 1 份炒飯和 1 杯可樂，她要付幾元才會剛好？用 ⑩ 表示 ●，① 表示 ●，先畫畫看，再寫出算式。(9 分)

算式：

（　　）元

版權所有・翻印必究