翰林門市 數學 第24回 (1/2)

數學 一下 第24回

# 期末成績考查(2)

## (第6~9單元)

得分

## 一 看圖填填看：每題3分，共9分




1. 小恩買了一包 ，他付了3個 和1個 ，其他都用 來付。他付了（　　）個 。

2. 小平有2個 、2個 和2個 。他的錢夠買一杯 嗎？

（夠，不夠）

3. 若白想買一個 ，他付了1個 和1個 ，還需要付（　　）個 才會剛好。

## 二 先用「正」畫記並寫出數量，再做做看：每答1分，共14分

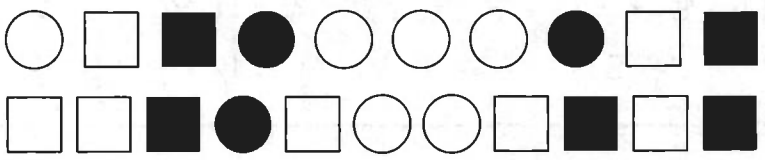

| 種類 | ○ | ● | □ | ■ |
|---|---|---|---|---|
| 用「正」畫記 | | | | |
| 數量（個） | | | | |

1. （○，●，□，■）最多。
2. （○，●，□，■）最少。
3. 用顏色分，灰色的有（　　）個，白色的有（　　）個。
4. 用形狀分，圓形有（　　）個，正方形有（　　）個。

## 三 看日曆和月曆填填看：每格1分，共11分

1.

左邊是昨天的日曆，明天是（　　）月（　　）日星期（　　）。

2.

6月

| 日 | 一 | 二 | 三 | 四 | 五 | 六 |
|---|---|---|---|---|---|---|
| | | | | 1 | 2 | 3 |
| 4 | 5 | 6 | 7 | 8 | 9 | 10 |
| 11 | 12 | 13 | 14 | 15 | 16 | 17 |
| 18 | 19 | 20 | 21 | 22 | 23 | 24 |
| 25 | 26 | 27 | 28 | 29 | 30 | |

(1) 6月的第一天是（　　）月（　　）日星期（　　），最後一天是（　　）月（　　）日星期（　　）。

(2) 這個月有（　　）個星期二和（　　）個星期五。

## 四 填填看：每格2分，共20分

1.

可換

□個1元

2.



可換

□個10元

3.



可換

□個50元

4.



可換

□個5元

5. 46＋7＝（　　）
6. 27＋50＝（　　）
7. 63＋25＝（　　）
8. 59－34＝（　　）
9. 32－7＝（　　）
10. 98－40＝（　　）


版權所有・翻印必究
【背面還有試題】

## 素五 下面是豪好吃餐館 12 月的每日特餐和餐點價格，看圖做做看：共 46 分

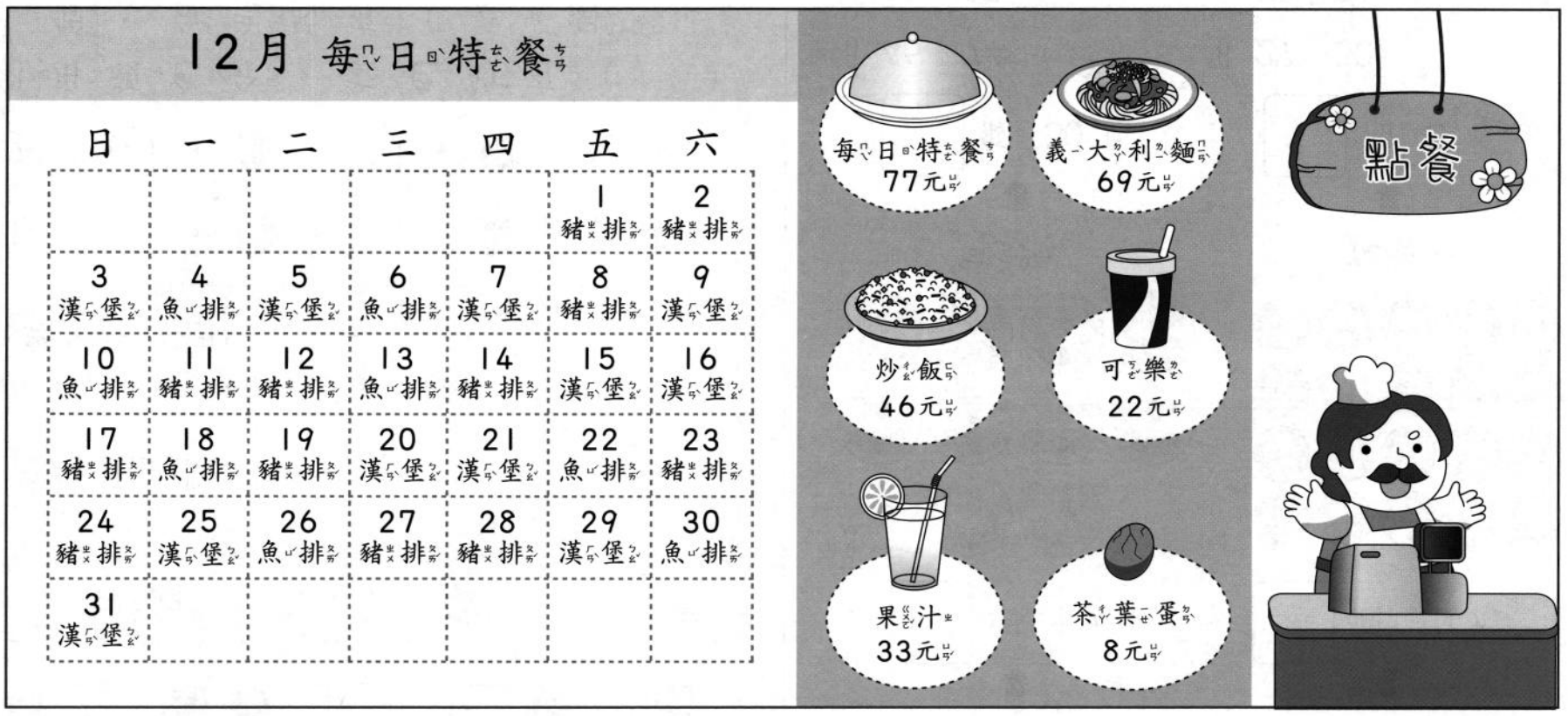


1. 12 月共有（　　）天。（3 分）

2. 12 月 26 日是祥祥生日，他們全家到豪好吃餐館慶生，這天是星期（　　）。（3 分）

3. 可欣在 12 月 19 日當天到豪好吃餐館吃飯，當天的每日特餐是什麼？（3 分）

（ 豬排 ， 漢堡 ， 魚排 ）

4. 家樺想吃的每日特餐是漢堡，他應該在下面哪一天去豪好吃餐館吃飯呢？（4 分）

（ 12 月 3 日 ， 12 月 30 日 ）

5. 用「正」畫記特餐的天數。(6 分)

| 每日特餐 | 畫記 | 數量 |
|---|---|---|
| 豬排 | | 天 |
| 漢堡 | | 天 |
| 魚排 | | 天 |

6. 每日特餐天數最多的是

（ 豬排 ， 漢堡 ， 魚排 ）。(3 分)

7. 每日特餐天數最少的是

（ 豬排 ， 漢堡 ， 魚排 ）。(3 分)

8. 12 月 17 日星期日這天，爸爸買了 1 份每日特餐和 1 杯可樂，共花多少元？（4 分）

共花（　　）元

9. 一份義大利麵比一份炒飯多幾元？（4 分）

多（　　）元

10. 媽媽買了一顆茶葉蛋，付 1 個 50 元錢幣，可以找回多少元？（4 分）

找回（　　）元

11. 小琪買了 1 份炒飯和 1 杯可樂，她要付幾元才會剛好？用 ⑩ 表示 ●，① 表示 ●，先畫畫看，再寫出算式。(9 分)

算式：

（　　）元


版權所有・翻印必究