# _____國小 數學1下 期中複習卷 (第一單元～第五單元)A

一 年___班 座號：___ 姓名：_____ 分數：_____

## 1 10個、10個圈起來，再填填看。

(每題2分，共4分)(本題圈法僅供參考)

(1)

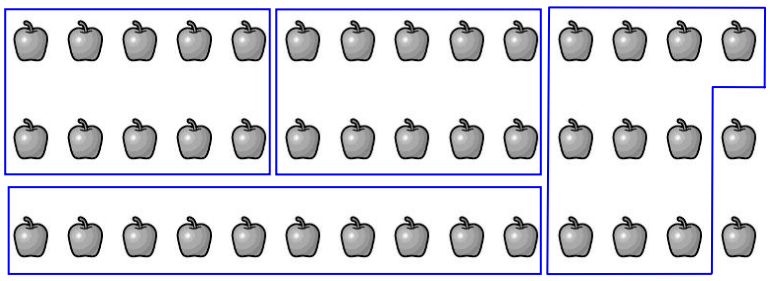

( 42 )個蘋果

(2)



( 37 )枝冰淇淋

## 2 填填看。(每格2分，共10分)

(1) 15－7＝( 8 )

15－8＝( 7 )

15－9＝( 6 )

(2) 5＋8＝13，8＋5＝( 13 )

6＋9＝15，7＋8＝( 15 )

## 3 比比看，把比較大的數圈起來。(每題2分，共8分)

(1) 28　36

(2) 40　43

(3) 47　45

(4) 50　39

## 4 算算看。(每題2分，共16分)

(1) 7＋6＝( 13 )

(2) 14－5＝( 9 )

(3) 8＋8＝( 16 )

(4) 15－6＝( 9 )

(5) 9＋5＝( 14 )

(6) 17－9＝( 8 )

(7) 10＋8＝( 18 )

(8) 12－7＝( 5 )

## 5 看圖回答問題。(每格3分，共12分)

(1) 彩色筆和( 9 )個□一樣長。

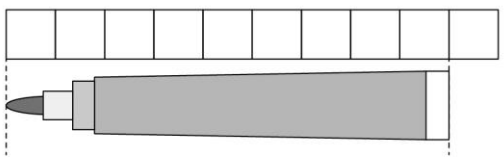

(2) 辣椒和( 6 )個□一樣長。

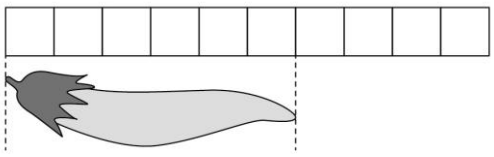

(3) 梳子和鉛筆合起來和( 12 )個□一樣長。梳子比鉛筆短( 2 )個□長。

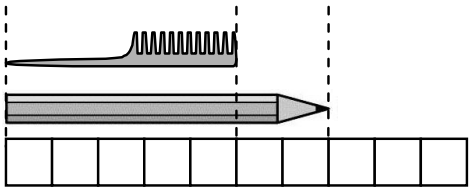

**6** 移動了哪一塊圖形板？把它塗上顏色。(每題 2 分，共 4 分)

(1)

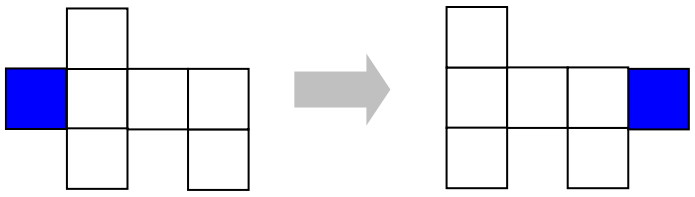

(2)

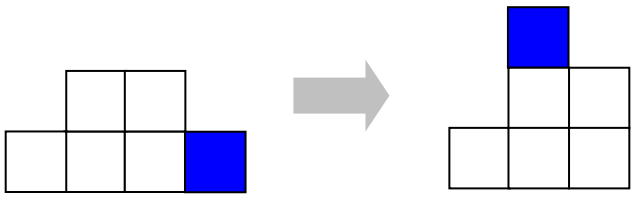

**7** 寫出做法和答案。

(每題 5 分，共 20 分)(本題做法僅供參考)

(1) 品伸原來有 4 個果凍，憶如再給他 8 個，品伸現在有幾個果凍？

算式：4＋8＝12

答：(　12　)個果凍

(2) 抽屜裡有 15 枝藍筆和 7 枝紅筆，紅筆比藍筆少幾枝？

算式：15－7＝8

答：紅筆少(　8　)枝

(3) 羽禾寫了 6 張卡片，姐姐寫了 9 張卡片，兩個人一共寫了幾張卡片？

算式：6＋9＝15

答：(　15　)張卡片

(4) 書桌長和 13 根筷子一樣長，茶几長和 8 根筷子一樣長，書桌長比茶几長多幾根筷子長？

算式：13－8＝5

答：多(　5　)根筷子長

**8** 先用「正」字記錄，再用數字記記看。(每格 2 分，共 16 分)



| | | |
|---|---|---|
| | 正正 | (　10　)隻 |
| | 正丅 | (　7　)隻 |
| | 正下 | (　9　)隻 |
| | 正正下 | (　14　)隻 |

**9** 素養題。(每題 5 分，共 10 分)

▲小慧上游泳課。

學校游泳池最多可以容納 42 個人。

(1) 小慧班上有 29 個人，游泳池可以讓所有人同時進去嗎？

(　可以　)

(2) 游泳池的置物櫃上都有編號，但有些號碼因為磨損看不清楚了，請你幫忙補上。

| | | | | | | | | | |
|---|---|---|---|---|---|---|---|---|---|
| 1 | 2 | 3 | 4 | 5 | 6 | 7 | 8 | 9 | 10 |
| 11 | 12 | 13 | 14 | 15 | 16 | 17 | 18 | 19 | 20 |
| 21 | 22 | 23 | 24 | 25 | 26 | 27 | 28 | 29 | 30 |
| 31 | 32 | 33 | 34 | 35 | 36 | 37 | 38 | 39 | 40 |
| 41 | 42 | 43 | 44 | 45 | 46 | 47 | 48 | 49 | 50 |