_____國小 數學 1 下 期中複習卷 (第一單元～第五單元)A

一 年___班 座號：___ 姓名：_____ 分數：_____

1 10個、10個圈起來，再填填看。

(每題2分，共4分)(本題圈法僅供參考)

(1)

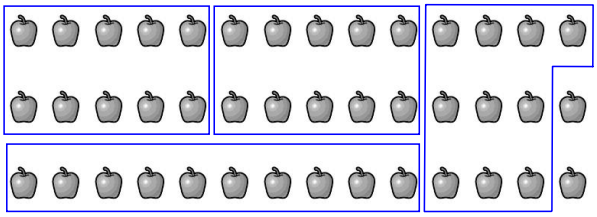

(42)個蘋果

(2)



(37)枝冰淇淋

2 填填看。(每格 2 分，共 10 分)

(1) 15－7＝(8)

15－8＝(7)

15－9＝(6)

(2) 5＋8＝13，8＋5＝(13)

6＋9＝15，7＋8＝(15)

3 比比看，把比較大的數圈起來。(每題 2 分，共 8 分)

(1) 28　36

(2) 40　43

(3) 47　45

(4) 50　39

4 算算看。(每題 2 分，共 16 分)

(1) 7＋6＝(13)

(2) 14－5＝(9)

(3) 8＋8＝(16)

(4) 15－6＝(9)

(5) 9＋5＝(14)

(6) 17－9＝(8)

(7) 10＋8＝(18)

(8) 12－7＝(5)

5 看圖回答問題。(每格 3 分，共 12 分)

(1) 彩色筆和(9)個□一樣長。

(2) 辣椒和(6)個□一樣長。

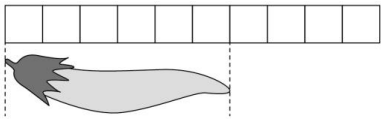

(3) 梳子和鉛筆合起來和(12)個□一樣長。梳子比鉛筆短(2)個□長。

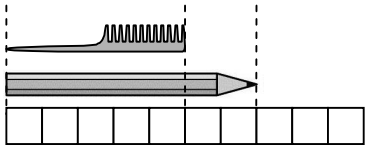

6 移動了哪一塊圖形板？把它塗上顏色。(每題 2 分，共 4 分)

(1)

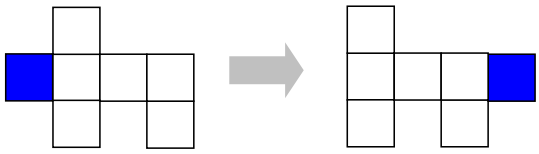

(2)

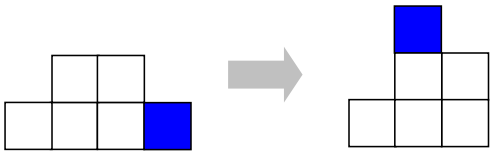

7 寫出做法和答案。
(每題 5 分，共 20 分)(本題做法僅供參考)

(1) 品伸原來有 4 個果凍，憶如再給他 8 個，品伸現在有幾個果凍？

算式：4＋8＝12

答：(12)個果凍

(2) 抽屜裡有 15 枝藍筆和 7 枝紅筆，紅筆比藍筆少幾枝？

算式：15－7＝8

答：紅筆少(8)枝

(3) 羽禾寫了 6 張卡片，姐姐寫了 9 張卡片，兩個人一共寫了幾張卡片？

算式：6＋9＝15

答：(15)張卡片

(4) 書桌長和 13 根筷子一樣長，茶几長和 8 根筷子一樣長，書桌長比茶几長多幾根筷子長？

算式：13－8＝5

答：多(5)根筷子長

8 先用「正」字記錄，再用數字記記看。(每格 2 分，共 16 分)



	正正	(10)隻
	正丅	(7)隻
	正下	(9)隻
	正正下	(14)隻

9 素養題。(每題 5 分，共 10 分)

▲小慧上游泳課。
學校游泳池最多可以容納 42 個人。

(1) 小慧班上有 29 個人，游泳池可以讓所有人同時進去嗎？
(可以)

(2) 游泳池的置物櫃上都有編號，但有些號碼因為磨損看不清楚了，請你幫忙補上。

1	2	3	4	5	6	7	8	9	10
11	12	13	14	15	16	17	18	19	20
21	22	23	24	25	26	27	28	29	30
31	32	33	34	35	36	37	38	39	40
41	42	43	44	45	46	47	48	49	50