_____國小 數學1下 期中複習卷 (第一單元～第五單元)B

一 年___班 座號：___ 姓名：_____ 分數：_____

1 填填看。(每格 1 分，共 8 分)

(1) 10 → 15 → 20 →(25)→(30)

(2) 28 → 30 →(32)→(34)→(36)

(3)



① 小欣前面排了(29)個人。

② 小俊排在第(35)個。

(4) 妹妹跳繩跳了 26 下，再跳 10 下，一共跳了(36)下。

2 下面是鬆餅店 4 種口味上午賣出的數量紀錄。

(每題 2 分，共 8 分)

蜂蜜	黑糖	奶酥	鮪魚
49 份	28 份	32 份	41 份

(1) 哪一種口味賣出的數量最多？(蜂蜜)

(2) 哪一種口味賣出的數量最少？(黑糖)

(3) 奶酥再賣出 10 份，一共賣出(42)份。

(4) 蜂蜜再賣出 1 份，一共賣出(50)份。

3 看圖做做看。(每題 3 分，共 12 分)

(1)

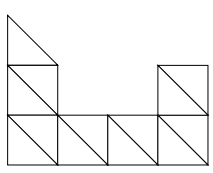

(13)個

(2)

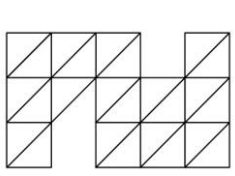

(25)個

(3)

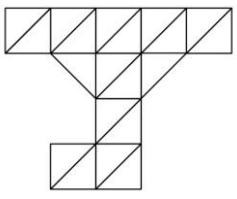

(20)個

(4)

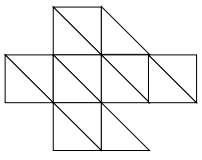

(14)個

4 看圖填填看。(每格 2 分，共 16 分)

(1)

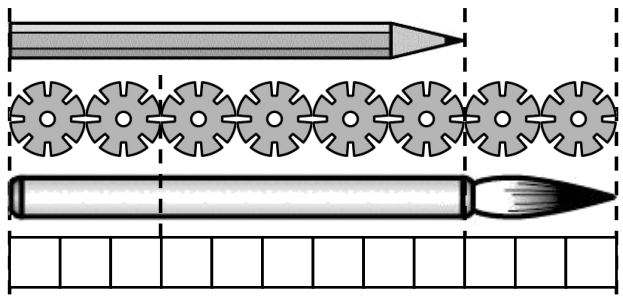

① 鉛筆和(9)個□一樣長。

② 毛筆和(12)個□一樣長。

③ 毛筆和(8)個花片一樣長。

④ 2 個花片會和(3)個□排在一起一樣長。

(2) 比一比，由長到短寫上 1、2、3。

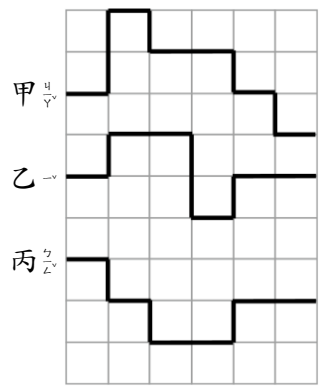

甲 (1)

乙 (2)

丙 (3)

(3) 從床經過書桌再到廁所，比直接從床到廁所，要多走(3)步。

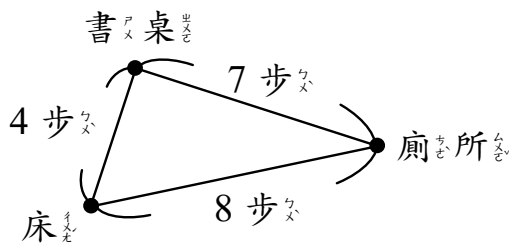

5 把答案一樣的算式連起來。

(每條連線 2 分，共 8 分)

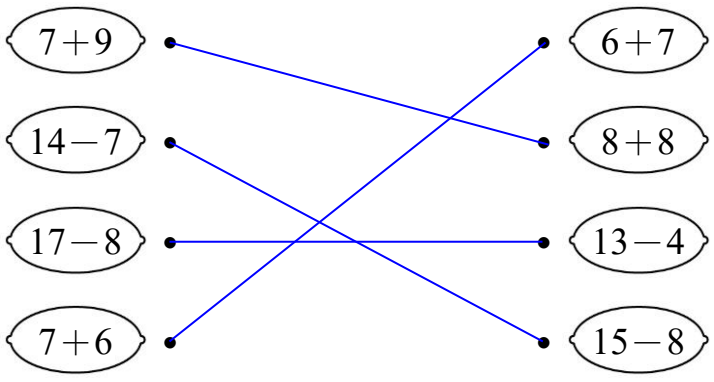

6 寫出做法和答案。

(每題 4 分，共 20 分)(本題做法僅供參考)

(1) 公園裡有 9 個人，又來了 7 個人，現在公園裡有幾個人？

算式：9＋7＝16

答：(16)個人

(2) 做一盤蒸蛋要用 6 顆雞蛋，做 2 盤蒸蛋要用幾顆雞蛋？

算式：6＋6＝12

答：(12)顆雞蛋

(3) 桌上有 14 個橘子，吃掉 9 個，還剩下幾個橘子？

算式：14－9＝5

答：(5)個橘子

(4) 魚缸裡有 17 隻孔雀魚和 8 隻銀屏魚，孔雀魚比銀屏魚多幾隻？

算式：17－8＝9

答：孔雀魚多(9)隻

(5) 爸爸有 5 頂棒球帽，遮陽帽比棒球帽多 8 頂，爸爸有幾頂遮陽帽？

算式：5＋8＝13

答：(13)頂遮陽帽

7 看圖數數看，在(　　)裡填入正確的數量。(每格 2 分，共 16 分)

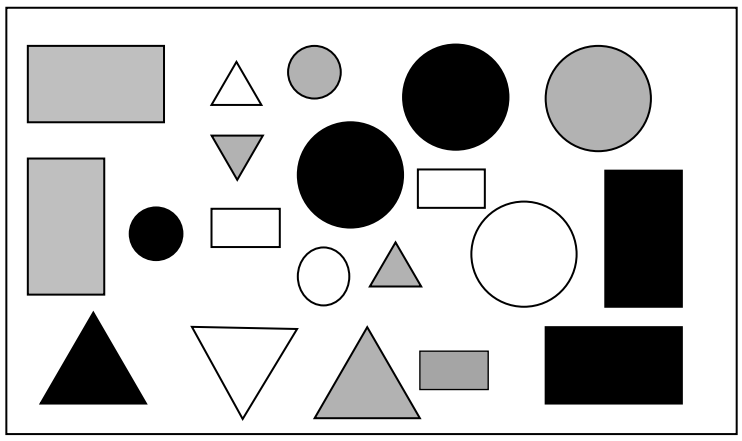

(1) 用形狀分：

三角形	長方形	圓形
(6)個	(7)個	(7)個

(2) 用顏色分：

黑色	灰色	白色
(6)個	(8)個	(6)個

(3) 用大小分：

大	小
(11)個	(9)個

8 素養題。(每題 4 分，共 12 分)

▲成語的數字。(本題做法僅供參考)

許多成語中都有數字，算算看，下面成語中的數字加起來是多少？

(1) 一言九鼎：(10)

1＋9＝10

(2) 四面八方：(12)

4＋8＝12

(3) 五光十色：(15)

5＋10＝15