_____國小 數學 1 下 期末複習卷 (第六單元～第九單元)B

一 年___班 座號：___ 姓名：_____ 分數：_____

1 先完成月曆，再回答問題。

(填月曆每格 1 分，其餘每格 2 分，共 24 分)

1 月						
日	一	二	三	四	五	六
			(1)	2	(3)	4
5	6	(7)	8	9	10	11
(12)	13	14	15	16	17	(18)
19	20	(21)	22	23	24	25
(26)	27	28	29	30	(31)	

(1)

爸爸說 1 月的最後一個星期六要帶我去兒童樂園，那一天是 1 月(25)日。

(2)

我的生日在 1 月的第三個星期五，是 1 月(17)日。

(3)

如果今天是 1 月 6 日，昨天是 1 月(5)日星期(日)，明天是 1 月(7)日星期(二)。

(4)

我每個星期三要上鋼琴課，1 月我一共有(5)天要上鋼琴課。

(5)

我每個星期二和星期五要上英文課，1 月一共有(9)天要上英文課。

2 用⑩和①畫畫看，再回答問題。(每個答案 2 分，共 8 分)

(本題畫法僅供參考)

(1) 芸可想買一個 76 元的筆筒，要怎麼付錢才會剛好？

⑩⑩⑩⑩⑩ ⑩⑩
①①①①① ①

如果只用⑩來付，最少要用(8)個⑩才夠。

(2) 小君想買一本 99 元的畫冊，要怎麼付錢才會剛好？

⑩⑩⑩⑩⑩ ⑩⑩⑩⑩
①①①①① ①①①①

如果只用⑩來付，最少要用(10)個⑩才夠。

3 圈圈看，用兩種不同的圈法圈出 67 元。(每個答案 2 分，共 4 分)

(本題圈法僅供參考)

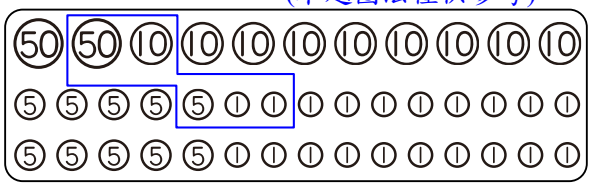

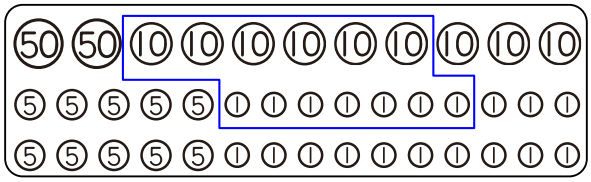

4 數一數有幾個？在比較多的□裡畫○。(每個答案 2 分，共 6 分)

□(63)個◆



○(72)個◎

5 寫出做法和答案。

(每題 5 分，共 25 分) (本題做法僅供參考)

(1) 魚池裡有 32 條吳郭魚和 45 條虱目魚，魚池裡共有幾條魚？

算式：32＋45＝77

答：(77)條魚

(2) 小霆有 63 個好寶寶章，小霓有 69 個好寶寶章，小霆的好寶寶章比小霓少幾個？

算式：69－63＝6

答：小霆少(6)個

(3) 游泳池有 14 個女生，男生比女生多 9 個，游泳池有幾個男生？

算式：14＋9＝23

答：(23)個男生

(4) 冠廷有 55 元，買筆花掉 9 元，冠廷還剩下多少元？

算式：55－9＝46

答：剩下(46)元

(5) 籃子裡有 23 顆球，其中有 5 顆是籃球，其他是足球，足球有幾顆？

算式：23－5＝18

答：足球有(18)顆

6 數數看，有多少元？在比較多的□裡畫○。(每個答案 1 分，共 6 分)

(1)

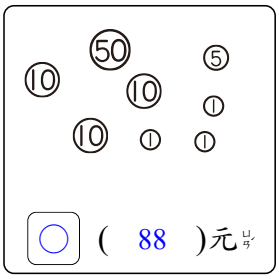

(88)元

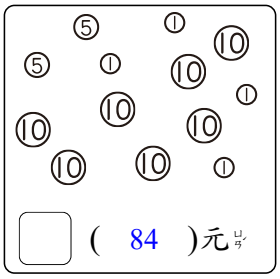

(84)元

(2)

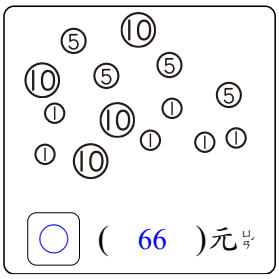

(66)元

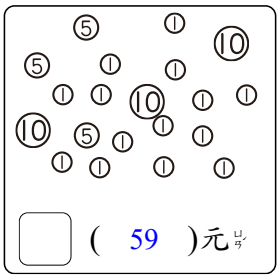

(59)元

7 下面是文具店老闆清點庫存的紀錄，看表回答問題。

(每題 3 分，共 12 分)

鉛筆	橡皮擦	膠水	膠帶
66 枝	57 個	91 個	84 個

(1) 哪一種文具的庫存最多？

(膠水)

(2) 哪一種文具的庫存最少？

(橡皮擦)

(3) 老闆發現 1 枝鉛筆斷掉了，現在剩下(65)枝鉛筆。

(4) 再賣掉 10 個膠帶後，會剩下(74)個膠帶。

8 素養題。(每格 5 分，共 15 分)

▲自動販賣機。

阿珠有 8 個十元和 6 個一元，她想在自動販賣機買一包 34 元的餅乾。

(1) 要投幾個十元才夠？

(4)個十元

(2) 自動販賣機零錢不足無法找錢，阿珠還能怎麼付錢？

(3)個十元和(4)個一元