翰林　數學　期中考己卷　答案　（1／2）

＿＿＿＿國小　＿＿＿＿學年度　第＿＿學期　　期中複習卷

數學領域　　範圍：1～5 單元

一　年＿＿＿＿班　＿＿＿＿號　姓名：＿＿＿＿＿＿＿＿　得分：＿＿＿＿＿＿

H1

一、看圖做做看：每格 2 分，共 38 分

1.

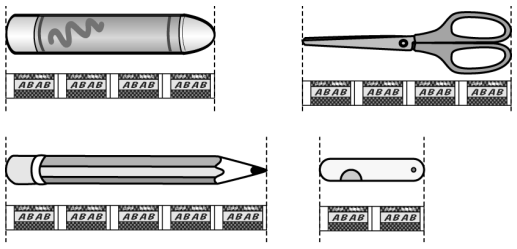

(1) 一枝 和（　4　）塊 一樣長。

(2) 一把 和（　4　）塊 一樣長。

(3) 一個 和（　2　）塊 一樣長。

(4) 一枝 和（　5　）塊 一樣長。

(5) 一枝 和一把 合起來和（　9　）塊 一樣長。

2. 一包棒棒糖有 10 根，下圖有（　67　）根棒棒糖。

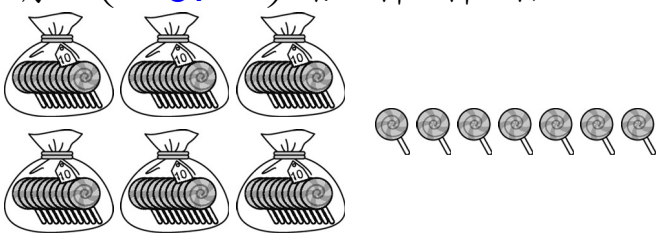

再多 1 根，共有（　68　）根棒棒糖；再多 1 根，共有（　69　）根棒棒糖。

3. 一包海苔有 10 片。下圖有（　70　）片海苔。



拿走 1 包，剩下（　60　）片海苔。再拿走 1 包，剩下（　50　）片海苔。

4. 一捆鉛筆有 10 枝。

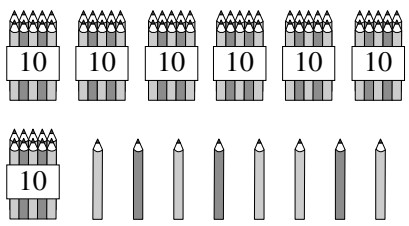

有（　7　）捆和（　8　）枝，合起來有（　78　）枝。

5. 左邊的圖形移動了哪一塊三角形，變成右邊的圖形？填入代號。

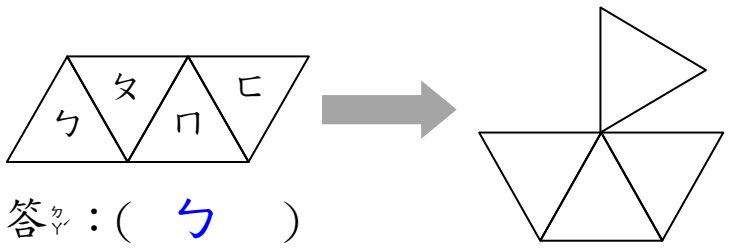

答：（　ㄅ　）

6. 下面的形體中，一共用了幾個？

(1)

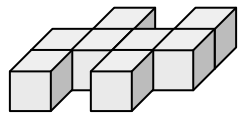

（　8　）個

(2)

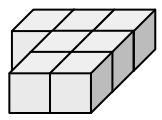

（　7　）個

(3)

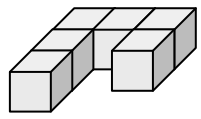

（　6　）個

(4)

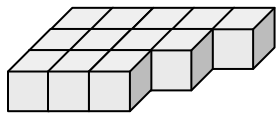

（　12　）個

二、連連看：每小題 2 分，共 14 分

1. 把答案一樣的算式連起來。

① 9＋5	① ㄇ	ㄅ 5＋6
② 7＋4	② ㄅ	ㄆ 4＋9
③ 5＋8	③ ㄆ	ㄇ 6＋8
④ 6＋6	④ ㄈ	ㄈ 9＋3

2. 虛線的部分要放入哪一個圖形？

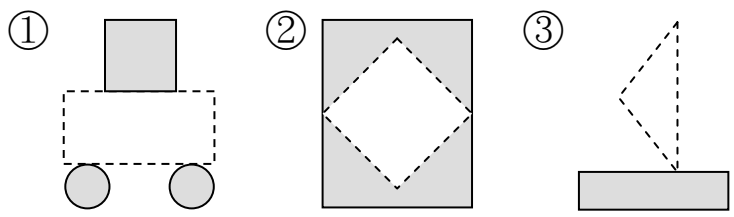

①ㄆ　②ㄅ　③ㄇ

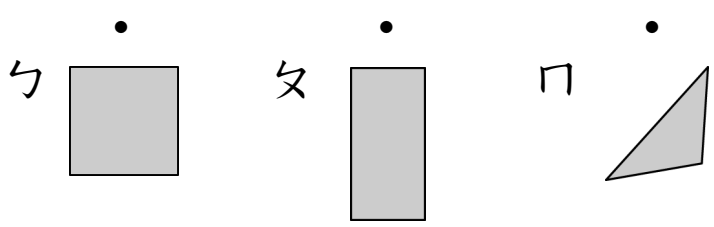

三、想一想，填填看：每格 1 分，共 6 分

1. 14－6＝（　8　）
   13－6＝（　7　）
   12－6＝（　6　）

2. 15－9＝（　6　）
   15－8＝（　7　）
   15－7＝（　8　）

四、圈圈看：每個 1 分，共 12 分

1. 下面哪一個數比 50 小？

72　　45　　80　　53

2. 下面哪些數的十位數字是 9？

94　　69　　90　　19

3. 用 6 個 ，可以拼出哪些圖形？

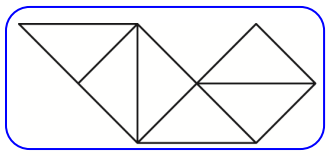

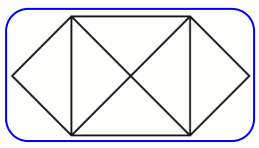

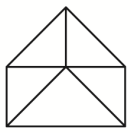

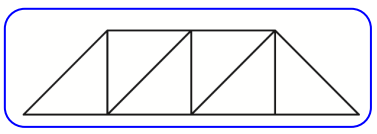

五、寫出算式做做看：每題 4 分，共 16 分

1. 寵物醫院裡有 8 隻小狗和 4 隻小貓，小狗和小貓合起來共有幾隻？

算式：8＋4＝12

共有（ 12 ）隻

2. 把黑色紙條剪掉一段和 2 根 一樣長的長度，剩下的長度和幾個 一樣長？

算式：7－2＝5

和（ 5 ）個 一樣長

3. 餐桌上，櫻桃有 13 顆，草莓有 9 顆，櫻桃比草莓多幾顆？

算式：13－9＝4

多（ 4 ）顆

4. 弟弟有 15 張貼紙，送給同學 6 張後，還剩下幾張貼紙？

算式：15－6＝9

還剩下（ 9 ）張貼紙

六、素養養成題：每答 1 分，共 8 分

★ 爸爸在下班後，從公司到市場買菜後再回家。

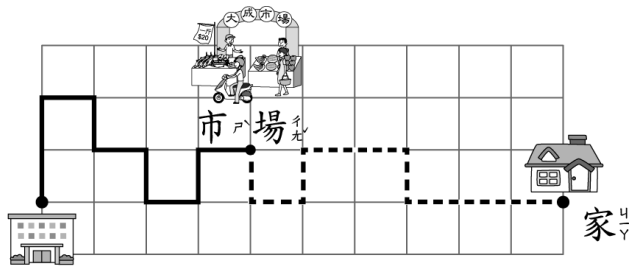

1. 從公司到市場要走（ 9 ）格，從市場到家裡要走（ 9 ）格，爸爸從公司經過市場到家共要走（ 18 ）格。

2. 市場架子上有 15 個馬鈴薯，爸爸買走了 7 個，現在架子上還有幾個馬鈴薯？

算式：15－7＝8

還有（ 8 ）個馬鈴薯

3. 一盒橘子有 5 顆，爸爸買了 5 盒橘子，爸爸總共買了（ 25 ）顆橘子。

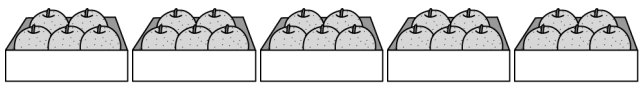

4. 爸爸在熟食區買了 6 塊雞塊，回家發現冰箱裡還有 5 塊雞塊，現在家裡有幾塊雞塊？

算式：6＋5＝11

有（ 11 ）塊雞塊

七、將答案等於 13 的車子塗上顏色：每個 1 分，共 6 分