_____國小　_____學年度　第____學期　期中複習卷

數學領域　範圍：1～5 單元

一　年　_____班　_____號　姓名：_____　得分：_____

一、選出正確的答案：每題 2 分，共 10 分

1.（①）魚缸裡有 5 條金魚和 8 條孔雀魚，魚缸裡共有幾條魚？　① 13 條 ② 12 條 ③ 11 條。

2.（③）一條緞帶和 8 個髮夾一樣長，明美剪下 3 個髮夾長的緞帶，剩下的緞帶和幾個髮夾一樣長？① 3 個 ② 4 個 ③ 5 個。

3.（①）公車上原有 18 個人，到了文化中心後，有 9 個人下車，公車上還剩下多少個人？　① 9 個人 ② 10 個人 ③ 11 個人。

4.（②）一包糖果有 10 顆，數一數下面共有幾顆糖果？① 52 顆 ② 64 顆 ③ 73 顆。



5.（③）圖形 是用了下面哪兩種圖形排出來的？

① 和 　② 和  　③ 和 。

二、看圖填填看：每格 2 分，共 44 分

1.共有多少輛汽車？

先數左邊：9＋（ 7 ）＝（ 16 ）

先數右邊：（ 7 ）＋9＝（ 16 ）

共有（ 16 ）輛汽車

2.

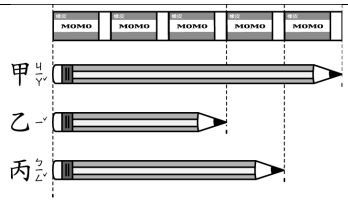

(1) 甲鉛筆和（ 5 ）個橡皮擦一樣長。

(2) 乙鉛筆和（ 3 ）個橡皮擦一樣長。

(3) 甲鉛筆比丙鉛筆（ 長 ）。（填長或短）

3.

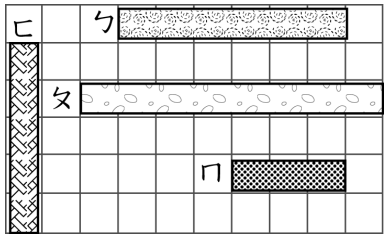

(1) 每條彩帶和幾格一樣長？

ㄅ有（ 6 ）格　ㄆ有（ 8 ）格

ㄇ有（ 3 ）格　ㄈ有（ 5 ）格

(2) 最長的彩帶比最短的彩帶多（ 5 ）格長。

4.剩下幾隻青蛙？



（ 12 ）－（ 6 ）＝（ 6 ）

5.一盒奇異果有 10 個，先數數看，再記在位值表上。

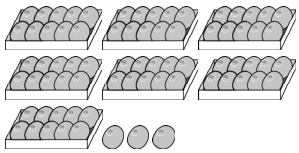

十位	個位
7	3

有（ 7 ）盒和（ 3 ）個，合起來有（ 73 ）個。

6.用 10 個 拼成的是圖形（ 甲 ）。（填入代號）

甲

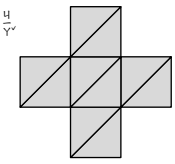

乙

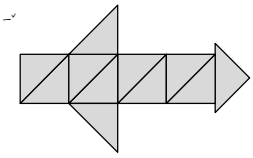

三、填填看、圈圈看：每答 1 分，共 14 分

1.先想一想，再填填看。

16－5＝11

15－5＝10

(1)14－5＝（ 9 ）

(2)13－5＝（ 8 ）

(3)12－5＝（ 7 ）

(4)上面這些算式的哪一個數相同？

（ 被減數 ，減數 ， 差 ）

2.按照數的順序填填看。

(1) 54 56 58 60 62 64

(2) 30 35 40 45 50 55

(3) 40 50 60 70 80 90 100

四、數數看，用了幾個：每題 2 分，共 8 分

1.

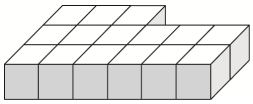

（ 15 ）個

2.

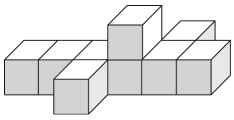

（ 9 ）個

3.

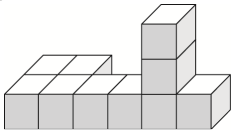

（ 10 ）個

4.

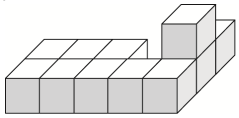

（ 11 ）個

五、把做法用算式記下來：每題 4 分，共 12 分

1.一盤水餃有 14 顆，哥哥吃掉 6 顆，還剩下幾顆水餃？

算式：14－6＝8

剩下（ 8 ）顆

2.桌上有 15 個小泡芙，安娜吃掉了 8 個小泡芙，桌上還剩下幾個小泡芙？

算式：15－8＝7

剩下（ 7 ）個小泡芙

3.教室裡有 12 個小朋友，教室外有 9 個小朋友，教室裡比教室外多幾個小朋友？

算式：12－9＝3

多（ 3 ）個小朋友

六、素養成題：每題 4 分，共 12 分

★今天是開心圖書館開幕的日子，終於可以進入圖書館了，小朋友們都很期待到圖書館借書和看書。請一起幫圖書館阿姨解答下面問題。

1.圖書館裡已經有 10 個小朋友，接著又進來了 7 個小朋友，現在圖書館裡共有多少個小朋友？

算式：10＋7＝17

共有（ 17 ）個小朋友

2.柯南借了 7 本書，靜香借了 9 本書，兩人共借了多少本書？

算式：7＋9＝16

共借了（ 16 ）本書

3.借閱排行榜中只有科學小百科類和繪本類兩大類，上榜的科學小百科類有 6 本、繪本類有 7 本，排行榜上的書共有幾本？

算式：6＋7＝13

共有（ 13 ）本