_____國小 數學1下 期中複習卷 (第一單元～第五單元)A

一 年___班 座號：___ 姓名：_____ 分數：_____

1 10個、10個圈起來，再填填看。(每題2分，共4分)

(1)



(　　)個蘋果

(2)



(　　)枝冰淇淋

2 填填看。(每格2分，共10分)

(1) 15－7＝(　　)

15－8＝(　　)

15－9＝(　　)

(2) 5＋8＝13，8＋5＝(　　)

6＋9＝15，7＋8＝(　　)

3 比比看，把比較大的數圈起來。(每題2分，共8分)

(1)

(2)

(3)

(4)

4 算算看。(每題2分，共16分)

(1) 7＋6＝(　　)

(2) 14－5＝(　　)

(3) 8＋8＝(　　)

(4) 15－6＝(　　)

(5) 9＋5＝(　　)

(6) 17－9＝(　　)

(7) 10＋8＝(　　)

(8) 12－7＝(　　)

5 看圖回答問題。(每格3分，共12分)

(1) 彩色筆和(　　)個□一樣長。

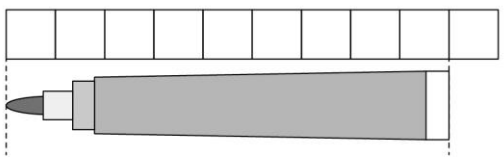

(2) 辣椒和(　　)個□一樣長。

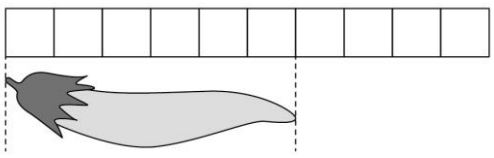

(3) 梳子和鉛筆合起來和(　　)個□一樣長。梳子比鉛筆短(　　)個□長。

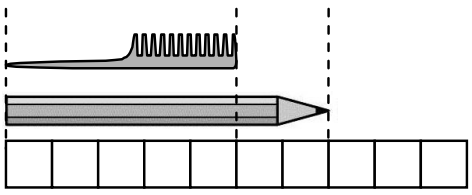

6 移動了哪一塊圖形板？把它塗上顏色。(每題 2 分，共 4 分)

(1)

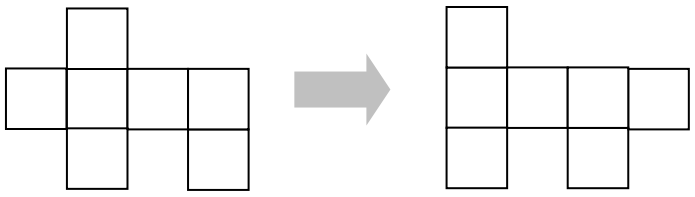

(2)

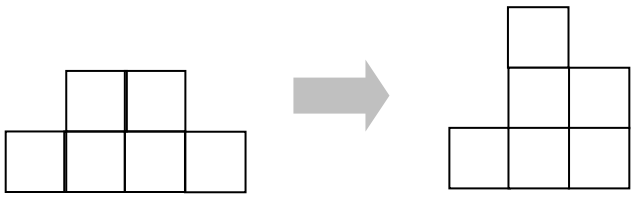

7 寫出做法和答案。
(每題 5 分，共 20 分)

(1) 品伸原來有 4 個果凍，憶如再給他 8 個，品伸現在有幾個果凍？

算式：_____

答：(　　)個果凍

(2) 抽屜裡有 15 枝藍筆和 7 枝紅筆，紅筆比藍筆少幾枝？

算式：_____

答：紅筆少(　　)枝

(3) 羽禾寫了 6 張卡片，姐姐寫了 9 張卡片，兩個人一共寫了幾張卡片？

算式：_____

答：(　　)張卡片

(4) 書桌長和 13 根筷子一樣長，茶几長和 8 根筷子一樣長，書桌長比茶几長多幾根筷子長？

算式：_____

答：多(　　)根筷子長

8 先用「正」字記錄，再用數字記記看。(每格 2 分，共 16 分)



		(　　)隻
		(　　)隻
		(　　)隻
		(　　)隻

9 素養題。(每題 5 分，共 10 分)

▲小慧上游泳課。
學校游泳池最多可以容納 42 個人。

(1) 小慧班上有 29 個人，游泳池可以讓所有人同時進去嗎？
(　　)

(2) 游泳池的置物櫃上都有編號，但有些號碼因為磨損看不清楚了，請你幫忙補上。

1		3	4	5				9	10
11	12			15		17			20
21	22		24	25		27		29	
		33	34		36	37		39	
41		43		45	46	47			50