# _____國小 數學 1 下 期中複習卷 (第一單元～第五單元)B

一 年___班 座號：___ 姓名：_____ 分數：_____

## 1 填填看。(每格 1 分，共 8 分)

(1) 10 → 15 → 20 →(　　)→(　　)

(2) 28 → 30 →(　　)→(　　)→(　　)

(3)




① 小欣前面排了(　　)個人。

② 小俊排在第(　　)個。

(4) 妹妹跳繩跳了 26 下，再跳 10 下，一共跳了(　　)下。

## 2 下面是鬆餅店 4 種口味上午賣出的數量紀錄。

(每題 2 分，共 8 分)

| 蜂蜜 | 黑糖 | 奶酥 | 鮪魚 |
|---|---|---|---|
| 49 份 | 28 份 | 32 份 | 41 份 |

(1) 哪一種口味賣出的數量最多？(　　)

(2) 哪一種口味賣出的數量最少？(　　)

(3) 奶酥再賣出 10 份，一共賣出(　　)份。

(4) 蜂蜜再賣出 1 份，一共賣出(　　)份。

## 3 看圖做做看。(每題 3 分，共 12 分)

(1)

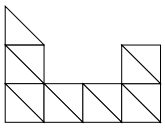

(　　)個

(2)

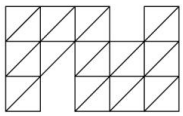

(　　)個

(3)

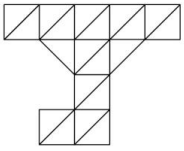

(　　)個

(4)

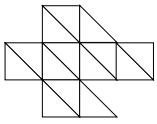

(　　)個

## 4 看圖填填看。(每格 2 分，共 16 分)

(1)

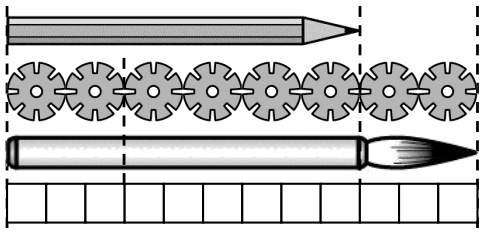

① 鉛筆和(　　)個□一樣長。

② 毛筆和(　　)個□一樣長。

③ 毛筆和(　　)個花片一樣長。

④ 2 個花片會和(　　)個□排在一起一樣長。

(2) 比一比，由長到短寫上 1、2、3。

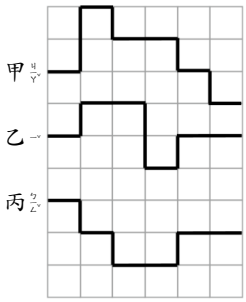


甲 (　　)

乙 (　　)

丙 (　　)

(3) 從床經過書桌再到廁所，比直接從床到廁所，要多走(　　)步。

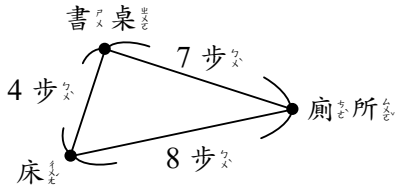


## 5 把答案一樣的算式連起來。

(每條連線 2 分，共 8 分)

| | |
|---|---|
| 7＋9 • | • 6＋7 |
| 14－7 • | • 8＋8 |
| 17－8 • | • 13－4 |
| 7＋6 • | • 15－8 |

**6** 寫出做法和答案。

(每題 4 分，共 20 分)

(1) 公園裡有 9 個人，又來了 7 個人，現在公園裡有幾個人？

算式：_____

答：(　　)個人

(2) 做一盤蒸蛋要用 6 顆雞蛋，做 2 盤蒸蛋要用幾顆雞蛋？

算式：_____

答：(　　)顆雞蛋

(3) 桌上有 14 個橘子，吃掉 9 個，還剩下幾個橘子？

算式：_____

答：(　　)個橘子

(4) 魚缸裡有 17 隻孔雀魚和 8 隻銀屏魚，孔雀魚比銀屏魚多幾隻？

算式：_____

答：孔雀魚多(　　)隻

(5) 爸爸有 5 頂棒球帽，遮陽帽比棒球帽多 8 頂，爸爸有幾頂遮陽帽？

算式：_____

答：(　　)頂遮陽帽

**7** 看圖數數看，在(　　)裡填入正確的數量。(每格 2 分，共 16 分)

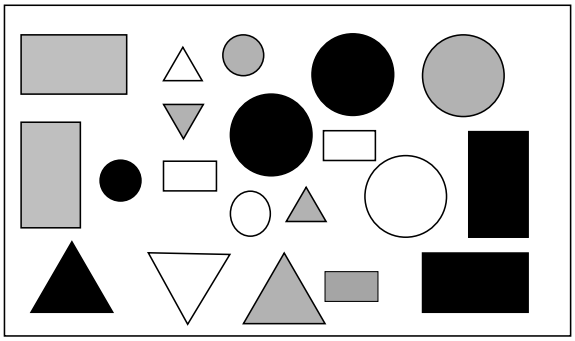

(1) 用形狀分：

| 三角形 | 長方形 | 圓形 |
|---|---|---|
| (　　)個 | (　　)個 | (　　)個 |

(2) 用顏色分：

| 黑色 | 灰色 | 白色 |
|---|---|---|
| (　　)個 | (　　)個 | (　　)個 |

(3) 用大小分：

| 大 | 小 |
|---|---|
| (　　)個 | (　　)個 |

**8** 素養題。(每題 4 分，共 12 分)

▲成語的數字。

許多成語中都有數字，算算看，下面成語中的數字加起來是多少？

(1) 一言九鼎：(　　)

(2) 四面八方：(　　)

(3) 五光十色：(　　)