_____國小 數學 1 下 期末複習卷 (第六單元～第九單元)A

一 年___班 座號：___ 姓名：_____ 分數：_____

1 填填看。(每格 1 分，共 12 分)

(1) 按照順序填填看。

①77 → 78 →(　　)→(　　)→ 81

②53 → 63 →(　　)→(　　)→ 93

③93 → 92 →(　　)→ 90 →(　　)

(2) 75 是(　　)個十和 5 個一合起來的。

(3) 6 個十和 8 個一合起來是(　　)。

(4) 小宥的生日是 7 月 12 日，
爸爸的生日是 5 月 6 日，
媽媽的生日是 11 月 23 日，
哥哥的生日是 4 月 10 日。
今年小宥全家人過生日的先後順序是：
(　　)→(　　)→(　　)→(　　)

2 看月曆回答問題。

(每格 1 分，共 7 分)

10 月						
日	一	二	三	四	五	六
			1	2	3	4
5	6	7	8	9	10	11
12	13	14	15	16	17	18
19	20	21	22	23	24	25
26	27	28	29	30	31	

(1) 10 月共有(　　)天。

(2) 如果今天是 10 月 25 日，昨天是 10 月(　　)日星期(　　)，明天是 10 月(　　)日星期(　　)。

(3) 曉涵每個星期五都要上繪畫課，10 月一共有(　　)天要上繪畫課。

(4) 10 月的第二個星期日是 10 月(　　)日。

3 圈圈看，再回答問題。

(每題 4 分，共 12 分)

(1) 至成有 10 個⑩，想買一臺 88 元，最少要拿出幾個⑩才夠？

⑩⑩⑩⑩⑩
⑩⑩⑩⑩⑩

答：最少要拿出(　　)個⑩才夠

(2) 彤卉有 7 個⑩，想買一個 41 元，最少要拿出幾個⑩才夠？

⑩⑩⑩⑩⑩
⑩⑩

答：最少要拿出(　　)個⑩才夠

4 數一數，有多少？

(每題 4 分，共 16 分)

(1)

(　　)根香蕉

(2)

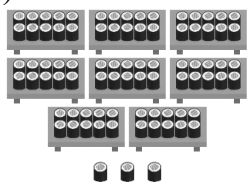

(　　)個壽司

(3)

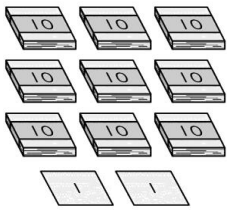

(　　)張紙

(4)



(　　)朵花

5 寫出做法和答案。

(每題 5 分，共 25 分)

(1) 球池裡有 22 顆紅球和 17 顆黃球，合起來是幾顆球？

算式：_____

答：(　　)顆球

(2) 器材室有 48 顆乒乓球，羽毛球比乒乓球少 9 顆，器材室有幾顆羽毛球？

算式：_____

答：(　　)顆羽毛球

(3) 家裡原來有 25 個蘋果，爸爸又買了 7 個回家，現在家裡有幾個蘋果？

算式：_____

答：(　　)個蘋果

(4) 小隆有 68 元，買一杯紅茶用掉 25 元，還剩下幾元？

算式：_____

答：剩下(　　)元

(5) 麵包店裡有 35 個蛋黃酥，鳳梨酥比蛋黃酥多 22 個，麵包店裡有幾個鳳梨酥？

算式：_____

答：(　　)個鳳梨酥

6 要怎麼付錢才會剛好？用⑩和①畫畫看。

(每題 4 分，共 12 分)

(1) 芊芊想買一盒 55 元。

(2) 國棟想買一臺 89 元。

(3) 震中想買一個 38 元。

7 下面都是百數表的一部分，想一想，填填看。

(每格 1 分，共 10 分)

(1)

35	36		
45		47	48
	56	57	

(2)

67		69	70
77			80
	88	89	

8 素養題。(每題 5 分，共 10 分)

▲筱芬負責舉辦公司聚餐。

此次公司聚餐共有 76 個人報名，三元餐廳一次可以容納 85 個人。

(1) 筱芬可以選擇三元餐廳嗎？

(　　)

(2) 後來又有 10 個人臨時報名，筱芬還可以選擇三元餐廳嗎？(　　)