_____國小 數學1下 期末複習卷 (第六單元～第九單元)B

一 年___班 座號：___ 姓名：_____ 分數：_____

1 先完成月曆，再回答問題。

(填月曆每格1分，其餘每格2分，共24分)

1 月						
日	一	二	三	四	五	六
			( )	2	( )	4
5	6	( )	8	9	10	11
( )	13	14	15	16	17	( )
19	20	( )	22	23	24	25
( )	27	28	29	30	( )	

(1) 

爸爸說 1 月的最後一個星期六要帶我去兒童樂園，那一天是 1 月( )日。

(2)

我的生日在 1 月的第三個星期五，是 1 月( )日。

(3)

如果今天是 1 月 6 日，昨天是 1 月( )日星期( )，明天是 1 月( )日星期( )。

(4)

我每個星期三要上鋼琴課，1 月我一共有( )天要上鋼琴課。

(5)

我每個星期二和星期五要上英文課，1 月一共有( )天要上英文課。

2 用⑩和①畫畫看，再回答問題。(每個答案2分，共8分)

(1) 芸可想買一個 76 元的筆筒，要怎麼付錢才會剛好？

如果只用⑩來付，最少要用( )個⑩才夠。

(2) 小君想買一本 99 元的畫冊，要怎麼付錢才會剛好？

如果只用⑩來付，最少要用( )個⑩才夠。

3 圈圈看，用兩種不同的圈法圈出 67 元。(每個答案2分，共4分)

⑤⑤⑤⑤⑤①①①①①①①①①①
⑤⑤⑤⑤⑤①①①①①①①①①①

⑤⑤⑤⑤⑤①①①①①①①①①①
⑤⑤⑤⑤⑤①①①①①①①①①①

4 數一數有幾個？在比較多的□裡畫○。(每個答案2分，共6分)



□( )個◆



□( )個◎

5 寫出做法和答案。

(每題 5 分，共 25 分)

(1) 魚池裡有 32 條吳郭魚和 45 條虱目魚，魚池裡共有幾條魚？

算式：＿＿＿＿＿＿

答：(　　)條魚

(2) 小霆有 63 個好寶寶章，小霓有 69 個好寶寶章，小霆的好寶寶章比小霓少幾個？

算式：＿＿＿＿＿＿

答：小霆少(　　)個

(3) 游泳池有 14 個女生，男生比女生多 9 個，游泳池有幾個男生？

算式：＿＿＿＿＿＿

答：(　　)個男生

(4) 冠廷有 55 元，買筆花掉 9 元，冠廷還剩下多少元？

算式：＿＿＿＿＿＿

答：剩下(　　)元

(5) 籃子裡有 23 顆球，其中有 5 顆是籃球，其他是足球，足球有幾顆？

算式：＿＿＿＿＿＿

答：足球有(　　)顆

6 數數看，有多少元？在比較多的□裡畫○。(每個答案 1 分，共 6 分)

(1)

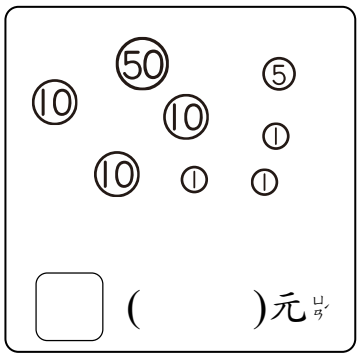

(　　)元

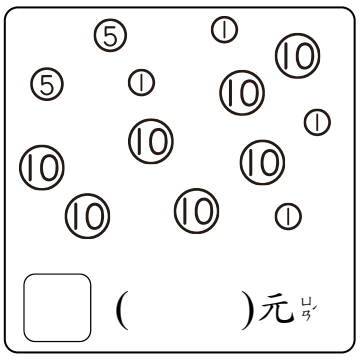

(　　)元

(2)

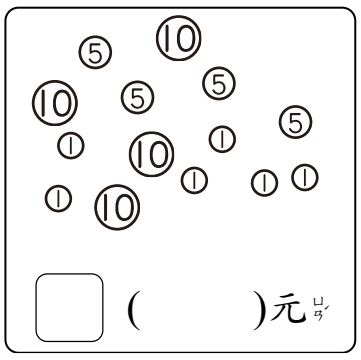

(　　)元

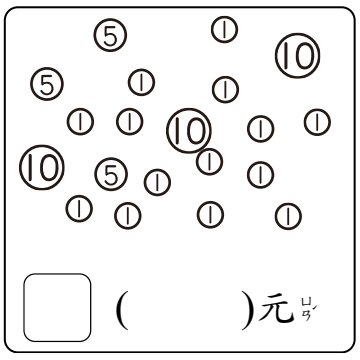

(　　)元

7 下面是文具店老闆清點庫存的紀錄，看表回答問題。

(每題 3 分，共 12 分)

鉛筆	橡皮擦	膠水	膠帶
66 枝	57 個	91 個	84 個

(1) 哪一種文具的庫存最多？

(　　)

(2) 哪一種文具的庫存最少？

(　　)

(3) 老闆發現 1 枝鉛筆斷掉了，現在剩下(　　)枝鉛筆。

(4) 再賣掉 10 個膠帶後，會剩下(　　)個膠帶。

8 素養題。(每格 5 分，共 15 分)

▲自動販賣機。

阿珠有 8 個十元和 6 個一元，她想在自動販賣機買一包 34 元的餅乾。

(1) 要投幾個十元才夠？

(　　)個十元

(2) 自動販賣機零錢不足無法找錢，阿珠還能怎麼付錢？

(　　)個十元和(　　)個一元