＿＿＿＿國小　＿＿＿＿學年度　第＿＿學期　　期末複習卷

數學領域　　範圍：6～9 單元

一　年　＿＿＿班　＿＿＿號　姓名：＿＿＿＿＿＿＿＿　得分：＿＿＿＿＿＿

H1

一、數數看，有幾元？每題 3 分，共 9 分

1.

□元

2.

□元

3.

□元

二、填填看：每格 2 分，共 34 分

1. 算算看，完成下面算式。

(1)



9＋（　　）＝（　　）

(2) 有 33 顆珠子，拿走 12 顆，剩下幾顆？

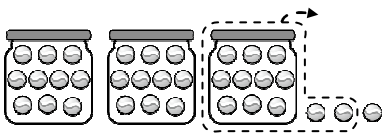

（　　）－（　　）＝（　　）

2. 完成下面的記錄表。

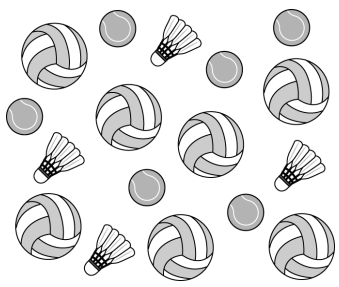

種類			
用「正」畫記			
數量	（　　）顆	（　　）顆	（　　）顆

3. 下面錢包有（　　）元。

4. 玲玲買一枝 15 元的冰棒。全部用 圓伍 付，要（　　）個 圓伍 。

5. 1 個 50圓 可以換（　　）個 10圓 。

6.



(1) 今天晚上小豪很認真在念書，是星期（　　）。

(2) 明天學校要考試，是（　　）月（　　）日。

三、完成下面月曆，並回答問題：每答 2 分，共 20 分

10 月						
日	一	二	三	四	五	六
			1	2	3	4
5	6	7	8		10 國慶日	11
	13	14	15 小楷生日	16		18
19	20	21 小琪生日	22	23	24	
26	27	28	29	30	31	

1. 10 月的第三個星期二是 10 月（　　）日。

2. 今天是國慶日，是 10 月（　　）日星期（　　），昨天是 10 月（　　）日。

3. 國慶日過後，小楷生日和小琪生日哪一天先到？（小楷生日，小琪生日）

4. 10 月的最後一天是 10 月（　　）日。

四、用 ⑩ 表示 10圓，用 ① 表示 1圓。要怎麼付錢才會剛好？畫畫看：3 分

▲



五、娜娜和同學到餐廳點餐，回答下面問題：每答 1 分，共 8 分

奶茶　雞塊　雞腿　薯條

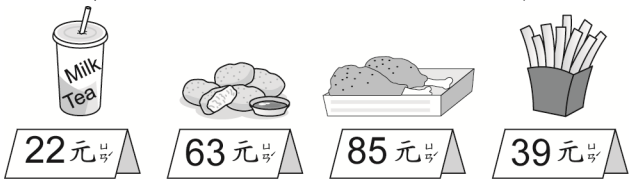

1.下面是娜娜的錢包，有（　　）元。

(1)娜娜買一份雞塊，要怎麼付錢才會剛好？在上圖圈圈看。

(2)娜娜買一份雞塊後，剩下的錢夠不夠買一杯奶茶？（　夠　，不夠）

2.買一份雞腿，要付（　　）個 10圓 和 3 個 圓伍 才會剛好。

3.皮皮有 3 個 10圓，是（　　）元。想買一份薯條，要補（　　）元才會剛好。用①畫出來。



4.婷婷買 2 杯奶茶，要付（　　）元。

六、寫出算式做做看：每題 4 分，共 12 分

1. 操場上原有 20 個人在跑步，又來了 37 個人在操場上打球，現在操場上共有幾個人？

算式：

共有（　　）個人

2. 興隆水果行綠色奇異果有 54 顆，金色奇異果有 31 顆，綠色奇異果比金色奇異果多幾顆？

算式：

多（　　）顆

3. 麥麥麵包坊一包吐司 45 元，爸爸付了 55 元，可以找回多少元？

算式：

找回（　　）元

七、素養成題：每答 2 分，共 14 分

★ 老師租了 4 部電影，下面是一年甲班票選最喜歡的電影，完成表格並回答問題。

電影	票選紀錄	票數（票）
阿拉丁	正 一	
獅子王	正 下	
小飛象	丌	
冰雪奇緣	正 丌	

1.哪一部電影最受歡迎？圈圈看。

ㄅ阿拉丁	ㄆ獅子王
ㄇ小飛象	ㄈ冰雪奇緣

2.一年甲班每個人各投一票，班上共有（　　）個人。

3.老師要在 9 月 28 日歸還電影，在月曆中圈出來。

9 月

日	一	二	三	四	五	六
		1	2	3	4	5
6	7	8	9	10	11	12
13	14	15	16	17	18	19
20	21	22	23	24	25	26
27	28	29	30			