_____國小　_____學年度　第____學期　期末複習卷

數學領域　範圍：6～9 單元

一　年　_____班　_____號　姓名：_____　得分：_____

一、選出正確的答案：每題 1 分，共 4 分

1.（　）6 個 可以換成幾個 ？　① 10 個 ② 20 個 ③ 60 個。

2.（　）下面的日曆是幾月幾日？

① 7 月 6 日
② 6 月 7 日
③ 6 月 27 日。

3.（　）下圖共有幾個積木？可以用哪一個算式來表示？　① 32＋6＝38　② 30＋6＝36　③ 32＋5＝37。

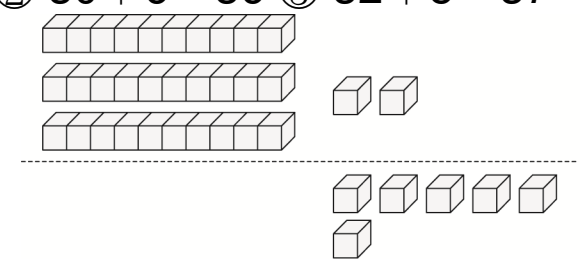

4.（　）下表是布置教室用掉的圖釘數量，1 個○表示 1 個，數量最少的圖釘有　① 4 個 ② 5 個 ③ 6 個。

種類	用○畫記
	○○○○○○
	○○○○○○○○
	○○○○○○○
	○○○○○

二、看圖填填看：每答 2 分，共 38 分

1.阿松用下面的錢買了一把剪刀，他付了（　　）元。

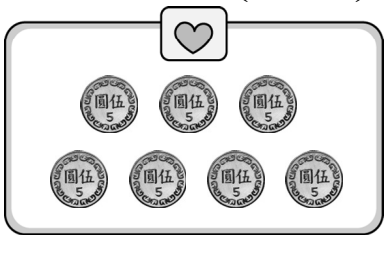

2.莎莎想買一個玩偶，怎麼付錢才會剛好？



(1)全部用 付，要付（　　）個 才會剛好。

(2)全部用 付，要付（　　）個 才會剛好。

3.今天是 5 月 24 日星期六。

(1)昨天是（　　）月（　　）日星期（　　）。

(2)明天是（　　）月（　　）日星期（　　）。

4.買一隻 和一隻 ，共要付（　　）元。



算式：（　　）＋（　　）＝（　　）

5.浩子把家中的水果記錄在下表，填填看、圈圈看。

哈密瓜	芒果	櫻桃	梨子
一	正丅	正正下	丅

(1)數量最多的水果是

（ ， ， ， ），有（　　）個。

(2)數量最少的水果是

（ ， ， ， ），有（　　）個。

(3)芒果比梨子多（　　）個。

(4)梨子比櫻桃少（　　）個。

三、連連看，有多少元？ 每題 2 分，共 12 分

①	②	③
ㄅ 16 元	ㄆ 5 元	ㄇ 12 元

④	⑤	⑥

四、看圖做做看： 每答 3 分，共 12 分

10 月						
日	一	二	三	四	五	六
			1	2	3	4
5	6 中秋節	7	8	9	10	11
12	13	14	15	16	17	18
19	20	21	22	23	24	25
26	27	28	29	30	31	

1.這一年的中秋節是（　　）月（　　）日星期（　　）。

2. 10 月 28 日是阿爾的生日，在月曆上把這一天圈起來。

五、把做法用算式記下來： 每題 4 分，共 16 分

1.從臺北站搭火車到鶯歌站，搭乘自強號的票價是 47 元，搭乘區間車的票價是 31 元，自強號票價比區間車票價多幾元？

算式：

多（　　）元

2.爸爸昨天煮了 15 個湯圓，今天又煮了 24 個，爸爸兩天共煮了幾個湯圓？

算式：

共煮了（　　）個湯圓

3.便利商店舉辦集點活動，集滿 11 點可以換一臺玩具車。欣誠集了 15 點，換了一臺玩具車後，剩下幾點？

算式：

剩下（　　）點

4.一張天文館門票 33 元，哥哥買了 2 張，共要付幾元？

算式：

共要付（　　）元

六、素養養成題： 每答 2 分，共 18 分

★安安把遊戲池中的水中玩具全部撈起，並把數量記錄下來，1 個◯表示 1 隻。

					
熱帶魚	螃蟹	章魚	海豚	烏龜	魟魚
◯◯◯ ◯◯◯	◯◯◯	◯◯◯	◯◯◯ ◯◯	◯◯ ◯◯	◯◯

1.水池中數量最多的玩具是（ ， ， ），有（　　）隻。

2.水池中數量最少的玩具是（ ， ， ），有（　　）隻。

3.烏龜有（　　）隻，海豚有（　　）隻。

4.數量一樣的是哪兩種玩具？（ ， ， ），各有（　　）隻。